Examen de la Olimpiada del Conocimiento Infantil

2024

SEXTO DE PRIMARIA

Educación Básica

Nivel Zona

EDUCACIÓN

SECRETARÍA DE EDUCACIÓN PÚBLICA

I. Observa las siguientes imágenes y responde las siguientes preguntas:

1. Todos los días en el almuerzo José Manuel consume un jugo Ades sabor manzana como el que se muestra en la imagen de 200 mL, esto quiere decir que a la semana José Manuel consume _____ g de hidratos de carbono.

A) 30.1 g
B) 60.2 g
C) 120 g
D) 30.1 mL



DECLARACIÓN NUTRIMENTAL	
CONTENIDO ENERGÉTICO POR ENVASE	196.2 kJ (46.4 kcal)
CANTIDADES POR 100 ml	
CONTENIDO ENERGÉTICO	98.1 kJ (23.2 kcal)
HIDRATOS DE CARBONO DISPONIBLES	4.3 g
AZÚCARES	3.9 g
AZÚCARES AÑADIDOS	3.7 g
LACTOSA	0 g
FIBRA DIETÉTICA	0.2 g
PROTEÍNAS	0.6 g
GRASAS TOTALES	0.4 g
GRASAS SATURADAS	0.05 g
GRASAS TRANS	0 mg
GRASA POLIINSATURADA	0.2 g
GRASA MONOINSATURADA	0.1 g
COLESTEROL	0 mg
SODIO	7.5 mg
	%VNR*
ZINC	15%*
VITAMINA B2	15%*
VITAMINA B3	15%*
VITAMINA B6	15%*
VITAMINA B12	15%*
VITAMINA C	15%*

* % VALORES NUTRIMENTALES DE REFERENCIA POR PORCIÓN DE 200 ml (% VNR)

2. ¿Cuántos mg de hidratos de carbono consume José Manuel al ingerir un jugo Ades?

A) 4.3 mg B) 4.3 g C) 8 600 mg D) 8.6 g

3. El jueves José Manuel tomó un jugo en el almuerzo y un jugo en la comida, ¿cuántos gramos de grasa saturada ingirió ese día?

A) 0.1 g B) 0.010 g C) 1 g D) 0.2 g

4. Si hiciéramos un análisis de cuánto sodio ingiere José Manuel en un año, considerando que solo tome un jugo al día, ¿Cuántos miligramos serían?

A) 2 737.5 mg B) 5 475 mg C) 450 mg D) 900 mg

5. El límite diario de ingesta de calorías para la edad de José Manuel es de 1300 kcal, ¿Cuántos jugos debería tomar José Manuel en un día para superar el límite diario de calorías establecido por la Secretaría de Salud?

A) 14 jugos B) 29 jugos C) 5 jugos D) 20 jugos

6. José Manuel estuvo tomando muchos jugos, consumiendo demasiados dulces y comida chatarra. Actualmente mide 1.42 m y tiene una masa corporal de 52 Kg, con apoyo de la siguiente fórmula calcula su IMC y responde las siguientes preguntas:

¿Cuál es el IMC de José Manuel?

$$\text{IMC} = \frac{\text{masa (kg)}}{\text{altura} \times \text{altura (m}^2\text{)}}$$

A) 25.7 kg/m^2 B) 18.3 kg/m^2 C) 36.6 kg/m^2 D) 0.027 kg/m^2

La OMS establece valores para el Índice de Masa Corporal (IMC), observa la siguiente tabla y responde la pregunta.

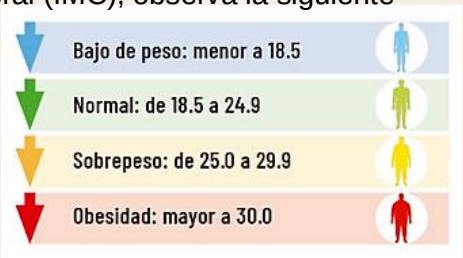

7. Según el IMC, ¿En qué rango se ubica José Manuel?

A) Bajo peso B) Normal

C) Sobrepeso D) Obesidad

8. Es una fracción que tiene como común denominador de base 10 (10, 100, 1000, …) al ser un número fraccionario, indica qué parte o fracción representa con respecto a la división de un total.

A) Fracción decimal B) Fracción equivalente

C) Fracción equivalente D) Fracción medular

En la comunidad de Omitlán perteneciente al estado de Guerrero, se realizó una encuesta a las pocas personas que viven ahí, con la intención de conocer quién sería su mejor candidato del partido MORENA a la presidencia de la república este 2024, según los datos obtenidos se organizó la siguiente tabla. Observa y responde las siguientes preguntas:

9. ¿A cuántas personas se encuestó?

A) 30

B) 100

C) 74

D) 30 y 29

10. ¿Quién de los cuatro candidatos tiene más preferencia en la comunidad como candidato a la presidencia de la república?

A) Claudia Sheinbaum B) Marcelo Ebrard

C) Ricardo Monreal D) Adán Augusto López

En la comunidad se dieron a la tarea de calcular con los datos obtenidos los porcentajes que le corresponden a cada precandidato.

Relaciona mediante líneas el número de votos con su respectivo porcentaje que le corresponde.

Nombre del candidato	**Porcentaje**
11. Claudia Sheinbaum	**a) 6.7 %**
12. Marcelo Ebrard	**b) 13.5 %**
13. Ricardo Monreal	**c) 39.1 %**
14. Adán Augusto López	**d) 40.5 %**

15. Cómo se lee la siguiente cantidad; 71256523
A) Setenta y un millones, doscientos cincuenta y seis mil, quinientos veintitrés.
B) Siete millones, ciento veinticinco mil, seiscientos veintitrés.
C) Setecientos doce mil millones, quinientos sesenta y cinco mil veintitrés.
D) Setenta y un millones, doscientos cincuenta y seis, quinientos veintitrés.

16. El estado de Guerrero tiene una superficie de 64 281 km^2, pero este dato se debe cambiar a hectáreas, ¿A cuántas hectáreas equivale la superficie del estado?
A) 6 428 100 ha
B) 64.281 ha
C) 10 000 ha
D) 10 ha

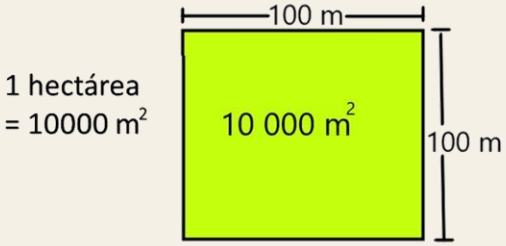

Observa a detalle la siguiente imagen y responde la siguiente pregunta:
17. ¿Qué tipo de simetría existe en la imagen?
A) Simetría central
B) Simetría axial
C) simetría lateral
D) Simetría perpendicular

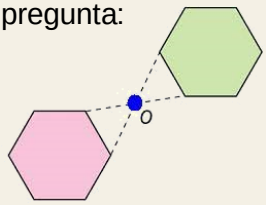

El hotel Princess de Acapulco fue devastado por el huracán Otis categoría 5, se estima que para su reconstrucción se ocuparan **$7.8 millones de pesos**. Sin embargo, el gobierno federal anunció que ayudará a los empresarios dueños del hotel con un 12%.
18. ¿Cuánto aportará el gobierno federal para la reconstrucción del hotel Princess?
A) 1 millón de pesos
B) 3.9 millones de pesos
C) 936 mil pesos
D) 120 mil pesos

19. Observa las siguientes calificaciones que obtuvo José Manuel en el ciclo escolar 2022-2023.
¿Cuál es la media aritmética de las calificaciones obtenidas por José Manuel?
A) 9.1
B) 9.0
C) 55
D) 8.5

Asignatura	**Calificación final**
Lengua Materna	9
Matemáticas	9
Ciencias Naturales	8
Historia	10
Geografía	10
Formación Cívica y Ética	9

20. Su papá de José Manuel conduce un auto a 120 k/h de forma constante para ir de su casa a su pueblo, en total tardó conduciendo a la misma velocidad 20 minutos hasta llegar a su destino. ¿Cuántos kilómetros hay de su casa a su pueblo?

A) 40 km B) 30 km C) 120 km D) 240 km

21. ¿Cuál es el origen de la palabra **texto**?

A) Tejido, tejer, entrelazar, etc. B) Producción, dirección, guion

C) Tejido, escritura, lazo, etc. D) Redacción, producción, ejecución

22. ¿Cuáles son los tipos de textos?

A) Narrativo, descriptivo, argumentativo y expositivo.

B) Mito, leyenda, cuento e historietas.

C) Narrativo, organizacional, de opinión e informático

D) Descriptivo, narrativo, informativo, noticiero.

23. Este tipo de texto tiene la finalidad de mostrar la opinión del autor sobre un tema y persuadir al lector de que comparta esa opinión.

A) Narrativo B) Argumentativo C) Expositivo D) Organizacional

24. Son elementos de unión entre los enunciados que brindan coherencia y mejoran la comprensión del texto.

A) Pronombre B) Verbos C) Conectores D) Adverbios

25. Son todas aquellas lecturas que se realizan en libros y que influyen en el desarrollo del trabajo de investigación:

A) Fuentes hemerográficas B) Fuentes bibliográficas

C) Lista de linkografías D) Fuentes eternas

26. Signos de puntuación que detienen el discurso para anunciar lo que sigue; generalmente, enumeraciones, ejemplificaciones o citas textuales.

A) Dos puntos B) punto y coma C) Comillas D) Viñetas

27. Selecciona la opción donde se realizó correctamente el modo del sentido de la oración con su respectivo ejemplo.

I. Modo indicativo	A) Levanten esa basura del suelo.
II. Modo subjuntivo	B) El tren llegará a las 11 de la mañana en punto.
III. Modo imperativo	C) La maestra dejó que jugáramos en el salón de clases.

A) IB, IIC, IIIA B) IA, IIC, IIIB C) IB, IIA, IIIC D) IC, IIB, IIIA

28. Los verbos; **comer, correr, reír, saltar**, están redactados en tiempo:
A) Infinitivo B) Futuro C) Pasado D) Copretérito

29. Es utilizado para modificar o complementar el contenido o la descripción de un verbo o adjetivo.
A) Adjetivo B) Verbo C) Infinitivo D) Adverbio

30. Son palabras que describen, califican o determinan el sustantivo y que coinciden en número y género con el mismo. ***Ejemplo****; la muñeca es hermosa*.
A) Adjetivo B) Verbo C) Infinitivo D) Adverbio

31. Este tipo de lenguaje hace referencia a cosas concretas. Lo que está escrito y descrito es exacto y se estructura bajos reglas lógicas; es decir puede decir lo que es verdadero o falso.
A) Lenguaje literal B) Lenguaje figurado
C) Lenguaje original D) Lenguaje propio

32. Lenguaje que se utiliza para expresar ideas complejas, hacer comparaciones entre cosas y señalar sus características. No es tan relevante si el contenido es verdadero o falso, ya que tiene múltiples significados.
A) Lenguaje literal B) Lenguaje figurado
C) Lenguaje original D) Lenguaje propio

33. Este tipo de lenguaje se encuentra en los poemas, canciones, fabulas, cuentos y otros textos creativos.
A) Lenguaje literal B) Lenguaje figurado
C) Lenguaje original D) Lenguaje propio

34. Este tipo de texto es una obra escrita u oral que utiliza el lenguaje para crear un mundo de ficción o de reflexión. Este tipo de texto no busca trasmitir datos objetivos.
A) Textos literarios B) Textos periodísticos
C) Textos informativos D) Textos dramáticos

35. Este tipo de texto el autor o autora utilizan los personajes para contar la historia, mediante diálogos en verso o prosa. Aunque se pueden leer, estos textos se escriben para ser representados en una puesta en escena.
A) Textos literarios B) Textos periodísticos
C) Textos informativos D) Textos dramáticos

36. Tipo de texto dramático que refleja el lado amable de la vida y muestra las situaciones que desearíamos que sucedieran.
A) Comedia B) Terror C) Melodrama D) Leyendas

37. Son narraciones ficticias que sirven para explicar sucesos de orígenes desconocido como la creación del mundo, universo, la fundación de los primeros pueblos.
A) Comedia B) Mitos C) Leyendas D) Fábulas

38. Este tipo de texto son composiciones breves donde los personajes casi siempre son animales u objetos que presentan características humanas como el poder de hablar. Estos textos incluyen una enseñanza al final del texto.
A) Comedia B) Mitos C) Leyendas D) Fábulas

39. En esta actividad participan dos personas o grupos que tiene posturas opuestas, dialogan, discuten, intercambian y exponen diversas ideas argumentadas.
A) Opinión B) Debate C) Análisis D) Argumento

Lee el siguiente texto y después realiza la actividad.

Ignacio salió de la escuela a las 12:30 pm el Viernes. llegó a su casa a la 1:00 pm, comio y jugo un rato, después, se puso a hacer su tarea con su papa Mario alberto.

40. Escribe correctamente el texto anterior.

_____
_____
_____
_____

41. Es el sistema que se encarga de defender al cuerpo humano de bacterias, hongos, virus, así como de sustancias extrañas que ingresen a él.
A) Sistema digestivo B) Sistema inmunológico
C) Sistema linfático D) Sistema nervioso

42. Son células que forman parte del sistema inmunitario también son llamados glóbulos blancos.
A) Reticulocitos b) Linfocitos D) Leucocitos D) Eritrocitos

43. Es la acción de activar el sistema inmunitario para desarrollar una memoria inmunitaria al ponerlo en contacto con el patógeno debilitado y desconocido para él.
A) Vacunación B) Fiebre D) Anticuerpo D) Antígeno

44. Son las acciones que realizan las personas para promover y mantener la salud física, mental y socioemocional, así como prevenir o controlar enfermedades con el fin de evitar situaciones que pongan en riesgo su salud.
A) Precaución B) Autocuidado D) Autoestima D) Automedicación

45. Es la Enfermedad de Trasmisión Sexual (ETS) más frecuente a nivel mundial, se contrae por contacto sexual genital, piel con piel, sin protección, incluso sin penetración, madre e hijo y por contacto con líquidos.
A) Clamidiasis B) Gonorrea C) Salmonelosis D) VIH

46. Enfermedad causada por el Virus de Inmunodeficiencia Humana, la cual destruye las células del sistema inmune, por lo tanto, el organismo queda sin protección contra infecciones que amenazan la salud.
A) Salmonelosis B) VPH C) Hepatitis D) SIDA

47. Método anticonceptivo de barrera, que puede ser el condón femenino y masculino, su uso adecuado previene algunas ETS, porque bloquea el contacto de fluidos corporales.
A) DIU B) Preservativo C) OTB D) Vasectomía

48. Es el exceso de masa corporal que no está dentro del indicador saludable de acuerdo con el índice de masa corporal.
A) Clamidiasis B) Anorexia C) Obesidad D) Desnutrición

49. Conjunto de procesos para que, a partir de nutrientes, como la glucosa y oxigeno se forme energía y se libere dióxido de carbono.
A) Reproducción B) Sinapsis C) Respiración D) Oxidación

50. Es el conjunto de seres vivos que habitan en una determinada región geográfica y que interactúan entre ellos y con su ambiente para realizar sus funciones vitales.
A) Ecología B) Ecosistema D) Biosfera D) Biodiversidad

51. Es la totalidad del espacio exterior detectable. Está conformado por galaxias, estrellas, planetas, materia oscura, radicación, etc.
A) Universo B) Sistema solar D) Agujero negro D) Vía Láctea

52. Son compuestos químicos (naturales o sintéticos), que pueden hacer sentir bien a la persona a corto plazo (generan gratificación o quitan algún malestar), pero sus efectos también pueden ponerte en riesgo.
A) Adicciones B) Sustancias psicoactivas (drogas)
C) Antibióticos D) Vitaminas

53. Es un movimiento inusual y súbito que ocurre en la corteza terrestre y llega a la superficie, lo que genera vibraciones perceptibles.
A) Tifón B) Huracán C) Sismo D) Tsunami

54. Cuando un sismo es de magnitud o intensidad considerable, se le llama:
A) Maremoto B) Terremoto
C) Epicentro D) Huracán categoría 5

55. Se refiere al punto en la superficie terrestre situado directamente sobre el fondo (hipocentro) que es la zona en el interior de la tierra donde se genera un sismo.
A) Epicentro B) Hipocentro C) Hipercentro D) Ojo del huracán

56. Son algunas recomendaciones para seguir **durante** un sismo:
A) Revisar los reglamentos de construcción, identificar las rutas de evacuación, no utilizar escaleras, etc.
B) Evitar tocar cables de energía eléctrica, no utilizar escaleras, evaluar los daños del inmueble, etc.
C) Hacer un plan de evacuación, organizar un botiquín, mantener la calma, etc.
D) Mantener la calma, no correr, no gritar, resguardarse en lugares seguros, no utilizar escaleras, etc.

57. Son grandes proporciones de tierra continua que se encuentran divididas por enormes océanos, por acuerdos políticos entre las naciones, o debido a procesos históricos.
A) Océanos B) Continentes B) Mares continentales D) País

58. Son las modificaciones a la temperatura y clima del planeta Tierra.
A) Cambio climático B) Heladas C) Inviernos D) Ruptura de la capa de ozono

59. Son agrupaciones que se caracterizan por emprender proyectos que modifican la visión consumista de la sociedad.
A) Grupos urbanos B) Grupos afrodescendientes
C) Grupos étnicos D) Grupos religiosos

60. Significa vivir con otras personas y habitar en armonía comunitaria diariamente en diferentes contextos y espacios.
A) Resiliencia B) Reciprocidad C) Diálogo D) Convivencia

61. Es un mecanismo de resolución de conflictos al posibilitar la construcción de acuerdos, además, para que esto se lleve acabo implica que haya voluntad, apertura y disposición.
A) Resiliencia B) Reciprocidad C) Diálogo D) Convivencia

62. Actitud de buena voluntad entre personas mediante la cual se reconocen las emociones y los intereses de otros. Se conoce con la frase “ponerse en los zapatos de otros”
A) Resiliencia B) Reciprocidad C) Empatía D) Tolerancia

63. Conflicto armado que se desarrolló de 1910 a 1917 y cuyo objetivo inicial fue ponerle fin al gobierno de Porfirio Díaz quien llevaba gobernando el país más de 30 años.
A) Guerra de Reforma B) Guerra de independencia
C) Porfiriato D) Revolución Mexicana

64. Son las principales causas por la cual se levantó el movimiento armado en contra del gobierno de Porfirio Díaz.
A) Desigualdad social, falta de libertad política, despojo de tierras a campesinos, etc.
B) Censura a la libertad de expresión, huelgas de campesinos, desarrollo exponencial del país.
C) Apoyo al campo, construcción de vías férreas, tratados internaciones con Francia a Inglaterra.
D) Falta de derechos laborales, apoyo a las chicas y medianas empresas, desempleo, etc.

65. Es toda forma de afectar, lastimar u obligar a una persona a actuar en contra de su bienestar, sus intereses o su voluntad por razón de su género; niña o niño, mujer u hombre.
A) Violencia sexual B) Violencia psicológica
C) Violencia de género D) Violencia estructural

66. Ocurre cuando una persona ejerce su poder de dominación y control contra una niña, niño o adolescente para obtener placer sexual.
A) Abuso sexual B) Abuso laboral
C) Explotación D) Abuso de autoridad

67. Es el maltrato a las personas por su color de piel, por su origen étnico o por su lengua.
A) Xenofobia B) Homofobia C) Incriminación D) Racismo

68. Tipo de violencia que consiste en compartir, publicar, comercializar fotos, audios, videos, de manera dolosa.
A) Violencia verbal B) Violencia digital
C) Violencia psicológica D) Violencia sexual

69. Son plataformas digitales que permiten la interacción y comunicación entre personas, grupos y organizaciones, independientemente de su ubicación geográfica.
A) Redes sociales B) Redes de telefonía
C) Secretaría de comunicaciones D) Diálogos

70. Son materiales que no permiten la conducción de la energía eléctrica, por ejemplo, el agua destilada, plástico, madera, etc.
A) Conductores B) Superconductores C) Aislantes D) Electrodos

71. ¿Cuál es la distancia del Sol al planeta Tierra?
A) 1500 millones de Km B)146.6 millones de Km
C) 15 millones de Km D) 300 mil millones de Km

72. Documento redactado por Francisco I. Madero, donde se convocaba a la lucha armada contra Porfirio Díaz, el día 20 de noviembre de 1910.
A) Plan de Ayala B) Plan de Guadalupe
C) Plan de Ayutla D) Plan de San Luis

73. Son aquellos que tienen una amplia diversidad de ecosistemas, seres vivos y especies originarias de un lugar. Algunos son México, Colombia, Ecuador, Perú, Brasil, Congo, etc.
A) Potencias mundiales B) Países megadiversos
C) Expulsores de migrantes D) Países desarrollados

74. Forma de gobierno y organización de un Estado donde el poder público es ejercido por representantes del pueblo y su gobierno sostenido por sus instituciones democráticas para que los ciudadanos sean considerados iguales ante la ley.
A) Monarquía B) República C) Teocracia D) Anarquía

75. Partido político que tomó el poder político del país tras la revolución mexicana, gobernó de 1929 al 2000, este partido también es conocido por no aplicar un gobierno democrático.
A) Partido Revolucionario Institucional (PRI)
B) Partido de la Revolución Democrática (PRD)
C) Partido Acción Nacional (PAN)
D) Movimiento de Regeneración Nacional (MORENA)

76. Periodo de la historia de México que abarcó de 1928 a 1934 y se caracterizó por la influencia de Plutarco Elías Calles durante los gobiernos de Emilio Portes Gil, Pascual Ortiz Rubio y Abelardo Rodríguez, quienes fueron gobernados por Calles.
A) Porfiriato B) Maximato C) Cardenismo D) Maderismo

77. Se llama así, cuando a una persona se le pide que trabaje más de lo que le corresponde, sin pagarle el salario adecuado, o sin considerar el tiempo extra de la jornada laboral.
A) Explotación juvenil B) Explotación sexual C) Explotación laboral D) Extorsión

78. Se refiere al legado de valores, creencias y prácticas que pasan de una generación a otra.
A) Costumbre B) Educación C) Creencias D) Religión

79. Es el dinero que el gobierno cobra a individuos y empresas privadas, para garantizar la construcción y el mantenimiento de la infraestructura, así como el correcto funcionamiento de los servicios públicos.
A) Comisión B) Interés C) Moneda nacional D) Impuesto

80. Se define como el conjunto de personas que viven en un mismo lugar, comparten normas de convivencia y trabajan unidas para lograr un objetivo en común.
A) Comunidad B) Ecosistema C) Convivencia D) Debate

81. Plataforma de video donde se comparte contenido creativo y entretenido de corta duración. Los usuarios lo utilizan para crear y divulgar videos con amigos y seguidores.
A) Facebook B) YouTube C) Tik Tok D) WhatsApp

82. Son algunas acciones para el buen uso de las redes sociales.
A) Subir imágenes intimas, aceptar la invitación de usuarios que no conoces, compartir contraseñas, etc.
B) No subir imágenes intimas, aceptar la invitación de desconocidos, avisar a papá o mamá con quién chateas en redes sociales, etc.
C) Jamás subir imágenes intimas, no compartir contraseñas, nunca aceptar la invitación de un desconocido, etc.
D) No compartir datos personales, descargar aplicaciones solo de sitios oficiales, aceptar ofertas o regalos de personas que no conoces, etc.

¡Suerte, sigue esforzándote como lo has hecho hasta ahora ¡

HOJA DE RESPUESTAS

1	Ⓐ	Ⓑ	Ⓒ	Ⓓ	21	Ⓐ	Ⓑ	Ⓒ	Ⓓ	41	Ⓐ	Ⓑ	Ⓒ	Ⓓ	61	Ⓐ	Ⓑ	Ⓒ	Ⓓ
2	Ⓐ	Ⓑ	Ⓒ	Ⓓ	22	Ⓐ	Ⓑ	Ⓒ	Ⓓ	42	Ⓐ	Ⓑ	Ⓒ	Ⓓ	62	Ⓐ	Ⓑ	Ⓒ	Ⓓ
3	Ⓐ	Ⓑ	Ⓒ	Ⓓ	23	Ⓐ	Ⓑ	Ⓒ	Ⓓ	43	Ⓐ	Ⓑ	Ⓒ	Ⓓ	63	Ⓐ	Ⓑ	Ⓒ	Ⓓ
4	Ⓐ	Ⓑ	Ⓒ	Ⓓ	24	Ⓐ	Ⓑ	Ⓒ	Ⓓ	44	Ⓐ	Ⓑ	Ⓒ	Ⓓ	64	Ⓐ	Ⓑ	Ⓒ	Ⓓ
5	Ⓐ	Ⓑ	Ⓒ	Ⓓ	25	Ⓐ	Ⓑ	Ⓒ	Ⓓ	45	Ⓐ	Ⓑ	Ⓒ	Ⓓ	65	Ⓐ	Ⓑ	Ⓒ	Ⓓ
6	Ⓐ	Ⓑ	Ⓒ	Ⓓ	26	Ⓐ	Ⓑ	Ⓒ	Ⓓ	46	Ⓐ	Ⓑ	Ⓒ	Ⓓ	66	Ⓐ	Ⓑ	Ⓒ	Ⓓ
7	Ⓐ	Ⓑ	Ⓒ	Ⓓ	27	Ⓐ	Ⓑ	Ⓒ	Ⓓ	47	Ⓐ	Ⓑ	Ⓒ	Ⓓ	67	Ⓐ	Ⓑ	Ⓒ	Ⓓ
8	Ⓐ	Ⓑ	Ⓒ	Ⓓ	28	Ⓐ	Ⓑ	Ⓒ	Ⓓ	48	Ⓐ	Ⓑ	Ⓒ	Ⓓ	68	Ⓐ	Ⓑ	Ⓒ	Ⓓ
9	Ⓐ	Ⓑ	Ⓒ	Ⓓ	29	Ⓐ	Ⓑ	Ⓒ	Ⓓ	49	Ⓐ	Ⓑ	Ⓒ	Ⓓ	69	Ⓐ	Ⓑ	Ⓒ	Ⓓ
10	Ⓐ	Ⓑ	Ⓒ	Ⓓ	30	Ⓐ	Ⓑ	Ⓒ	Ⓓ	50	Ⓐ	Ⓑ	Ⓒ	Ⓓ	70	Ⓐ	Ⓑ	Ⓒ	Ⓓ
11	Ⓐ	Ⓑ	Ⓒ	Ⓓ	31	Ⓐ	Ⓑ	Ⓒ	Ⓓ	51	Ⓐ	Ⓑ	Ⓒ	Ⓓ	71	Ⓐ	Ⓑ	Ⓒ	Ⓓ
12	Ⓐ	Ⓑ	Ⓒ	Ⓓ	32	Ⓐ	Ⓑ	Ⓒ	Ⓓ	52	Ⓐ	Ⓑ	Ⓒ	Ⓓ	72	Ⓐ	Ⓑ	Ⓒ	Ⓓ
13	Ⓐ	Ⓑ	Ⓒ	Ⓓ	33	Ⓐ	Ⓑ	Ⓒ	Ⓓ	53	Ⓐ	Ⓑ	Ⓒ	Ⓓ	73	Ⓐ	Ⓑ	Ⓒ	Ⓓ
14	Ⓐ	Ⓑ	Ⓒ	Ⓓ	34	Ⓐ	Ⓑ	Ⓒ	Ⓓ	54	Ⓐ	Ⓑ	Ⓒ	Ⓓ	74	Ⓐ	Ⓑ	Ⓒ	Ⓓ
15	Ⓐ	Ⓑ	Ⓒ	Ⓓ	35	Ⓐ	Ⓑ	Ⓒ	Ⓓ	55	Ⓐ	Ⓑ	Ⓒ	Ⓓ	75	Ⓐ	Ⓑ	Ⓒ	Ⓓ
16	Ⓐ	Ⓑ	Ⓒ	Ⓓ	36	Ⓐ	Ⓑ	Ⓒ	Ⓓ	56	Ⓐ	Ⓑ	Ⓒ	Ⓓ	76	Ⓐ	Ⓑ	Ⓒ	Ⓓ
17	Ⓐ	Ⓑ	Ⓒ	Ⓓ	37	Ⓐ	Ⓑ	Ⓒ	Ⓓ	57	Ⓐ	Ⓑ	Ⓒ	Ⓓ	77	Ⓐ	Ⓑ	Ⓒ	Ⓓ
18	Ⓐ	Ⓑ	Ⓒ	Ⓓ	38	Ⓐ	Ⓑ	Ⓒ	Ⓓ	58	Ⓐ	Ⓑ	Ⓒ	Ⓓ	78	Ⓐ	Ⓑ	Ⓒ	Ⓓ
19	Ⓐ	Ⓑ	Ⓒ	Ⓓ	39	Ⓐ	Ⓑ	Ⓒ	Ⓓ	59	Ⓐ	Ⓑ	Ⓒ	Ⓓ	79	Ⓐ	Ⓑ	Ⓒ	Ⓓ
20	Ⓐ	Ⓑ	Ⓒ	Ⓓ	40					60	Ⓐ	Ⓑ	Ⓒ	Ⓓ	80	Ⓐ	Ⓑ	Ⓒ	Ⓓ
															81	Ⓐ	Ⓑ	Ⓒ	Ⓓ
															82	Ⓐ	Ⓑ	Ⓒ	Ⓓ

HOJA CON CLAVE DE RESPUESTAS

1.B	21.A	41.B	61.C
2.C	22.A	42.D	62.C
3.D	23.B	43.A	63.D
4.B	24.C	44.B	64.A
5.B	25.B	45.A	65.C
6.A	26.A	46.D	66.A
7.C	27.A	47.B	67.D
8.A	28.A	48.C	68.B
9.C	29.D	49.C	69.A
10.A	30.A	50.B	70.C
11.D	31.A	51.A	71.B
12.C	32.B	52.B	72.D
13.B	33.B	53.C	73.B
14.A	34.A	54.B	74.B
15.A	35.D	55.A	75.A
16.A	36.A	56.D	76.B
17.A	37.B	57.B	77.C
18.C	38.D	58.A	78.A
19.A	39.B	59.A	79.D
20.A	40.REVISAR	60.D	80.A
			81.C
			82. C