GOBIERNO DEL ESTADO DE VERACRUZ | SEV | SEB | Coordinación del Programa de Estímulos a Estudiantes Destacados | Olimpiada del Conocimiento Infantil 2025



Olimpiada

del Conocimiento Infantil

2025

Primera Etapa

Mayo 2025

LENGUAJES

Basándote en la información de la imagen, contesta las preguntas de la 1 a la 5.

18 de noviembre del 2023

PERIÓDICO "LA NOTA"

HURACÁN "OTIS"

La intensificación que adquirió en pocas horas el huracán Otis, batiendo todos los récords en la velocidad y ferocidad responde a un evento insólito. Lo más habitual es que los ciclones se debiliten antes de llegar al continente, calmando su temperamento como si perdieran combustible, hasta colapsar cuando tocan las costas. Contra las predicciones de los modelos de simulación, Otis desafió a los cálculos matemáticos. La naturaleza resultó más poderosa que el ingenio humano, sorprendiendo a todos. Por ello los daños fueron mayores y la gente sigue padeciendo las afectaciones.

PRESENTADO POR GLADYS SERRANO

1. Identifica el autor de la información.
   a) Ramón Loyo
   b) La Nota
   c) Gladys Serrano
   d) Huracán "Otis"

2. Selecciona el medio de comunicación escrita que se representa la imagen.
   a) Revista
   b) Periódico
   c) Cartel
   d) Carta

3. La agencia que presenta la información es:
   a) Ramón Loyo
   b) La Nota
   c) Gladys Serrano
   d) El Nacional

4. La información presentada se relaciona con:
   a) Una noticia periodística relacionada con el huracán "Otis"
   b) Un artículo de opinión acerca del desastre ocasionado por el tornado
   c) Una noticia acerca de los pescadores en el puerto de Acapulco
   d) Un artículo sobre las condiciones al paso del huracán "Otis"

5. La idea principal de la información presentada es:
   a) El Sr. Ramón Loyo observa los escombros de su casa, después del paso del huracán. Lo que llamó la atención de los lectores de la nota
   b) La intensidad del huracán "Otis" como consecuencia del cambio climático y lo que la gente debe hacer para resguardarse de estos fenómenos
   c) El huracán aumentó su intensidad en poco tiempo, lo que indica que la naturaleza se ha vuelto cada vez más desafiante
   d) Los daños ocasionados a las familias por el paso del huracán "Otis", y la respuesta de las autoridades ante la situación

6. Lee ambas columnas e identifica cada término o elemento con su correspondiente significado, relacionado con las manifestaciones culturales.

Manifestaciones culturales:

I. Costumbres
II. Ritmo
III. Movimiento
IV. Creencias

Significados:

A. Es percutida por un instrumento y que al vibrar y producir movimiento en ondas se puede reflejar y sentir.
B. Permanencia transformada en los momentos donde se da la representación y modificación de los elementos que componen la naturaleza de la obra.
C. Estructura de la naturaleza, sus seres o los artificios generados por el humano.
D. Energía que entra como luz, que refracta y refleja en un valioso sentido: el visual.
E. Dinámica de cambio de forma emitido por la energía en determinado espacio.
F. Estructura organizativa que da una proporción en los tiempos relacionada con formas, movimientos, sonidos y colores.

Selecciona la opción que contenga la relación correcta.

a) IE, IIA, IIID, IVB
b) IF, IIC, IIIA, IVF
c) IA, IIB, IIID, IVE
d) IB, IIF, IIIE, IVC

Lee con atención y responde las preguntas de la 7 a la 9.



El famoso astronauta Neil Alden Armstrong nació en la localidad de Wapakoneta, en el Estado de Ohio (EE.UU.) el 05 de agosto de 1930. Su padre era auditor y eso hizo que se mudaran **a menudo**, lo que tal vez provocó su pasión por la aviación y el vuelo.

Esa pasión se tornó en realidad cuando cursaba la secundaria, estudios que compatibilizó con clases de pilotaje de aviones en el aeródromo de la localidad, y a sus 16 años hizo su primer vuelo en solitario y obtuvo su certificado oficial.

A los 17 años comenzó estudios de ingeniería aeronáutica en la Universidad Purdue de Indiana y **en aquel tiempo,** en 1955 terminó sus estudios y se convirtió en piloto de investigación civil en el Comité Asesor Nacional de Aeronáutica (NACA), en la Base de la Fuerza Aérea Edwards. En 1958 la NACA comenzaría a ser la NASA o Administración Nacional de la Aeronáutica y del Espacio, de la que seguiría formando parte.

En 1962, Armstrong se unió al programa espacial, **desde luego** con un grupo de astronautas en el proyecto llamado Programa Gemini, **más tarde** formó parte del Programa Apolo.

El 16 de julio de 1969 Armstrong partió rumbo a la Luna desde el Centro Espacial John F. Kennedy, en el Apolo 11. En dicha operación participarían también otros astronautas, como Michael Collins y Edwin Aldrin. El aterrizaje en la Luna tendría lugar el 20 de julio [...] El 24 de julio llegarían de nuevo a Tierra, en concreto al Océano Pacífico, después de una misión exitosa.

En 1971 Armstrong dejó la NASA y **de vez en vez**, se dedicó a la docencia en la Universidad de Cincinnati, siendo profesor de ingeniería aeroespacial durante ocho años.

Neil Armstrong falleció el 25 de agosto de 2012 a la edad de 82 años en la ciudad de Cincinnati, Ohio.

7. En el siguiente párrafo, complementa la información del texto que ya leíste. Identifica los adverbios faltantes, seleccionándolos de las opciones que se presentan a continuación.

El aterrizaje en la Luna tendría lugar el 20 de julio, cuatro días _____, y Armstrong sería el primero en poner pie en suelo lunar. Este importante episodio de la historia, _____, se conoce también por la frase que pronunció nada más pisar la Luna: "Un pequeño paso para el hombre y un gran paso para la humanidad". Durante su viaje a la Luna, lograron recolectar muestras del suelo lunar, _____ hicieron pruebas de movimiento y tomaron fotografías _____de regresar. El 24 de julio llegarían de nuevo a Tierra.

a) después, luego, antes y pronto
b) mañana, a menudo, por poco, antes
c) después, hoy, luego y antes
d) hoy, pronto, nunca y aún

8. Observa las palabras subrayadas en el texto e identifica a qué tipo corresponden.

a) Frases sustantivas
b) Verbos conjugados
c) Frases adverbiales
d) Adjetivos calificativos

9. Selecciona los adverbios que completen correctamente las siguientes oraciones:

Neil Armstrong _____ hubiera estudiado otra carrera de no ser por su pasión por los vuelos.
Después de cumplida la misión, los astronautas regresaron _____a la nave.
La gente _____ le preguntaba a Armstrong cómo es la superficie de la Luna.

a) el astronauta, por poco, por la tarde
b) tal vez, de una vez, a menudo
c) todavía, aún, desde luego
d) jamás, por poco, por la mañana

10. Coloca el recurso literario que falta para completar el texto sobre anuncios publicitarios.

La mejor estrategia para persuadir al consumidor es utilizar metáforas, analogías, comparaciones, rimas, _____ o juego de palabras.

a) figuras
b) hipérboles
c) símil
d) aliteración

11. Completa el siguiente párrafo con la palabra que corresponda.

La estructura del cuento

En esta etapa llamada _____ suelen surgir los elementos que imposibilitan a los personajes satisfacer sus deseos. Ejemplo: el lobo se hizo pasar por la abuela para engañar a la caperucita.

a) desenlace
b) inicio
c) nudo
d) planteamiento

Lee la información que se presenta en la siguiente imagen y contesta las preguntas de la 12 a la 15.

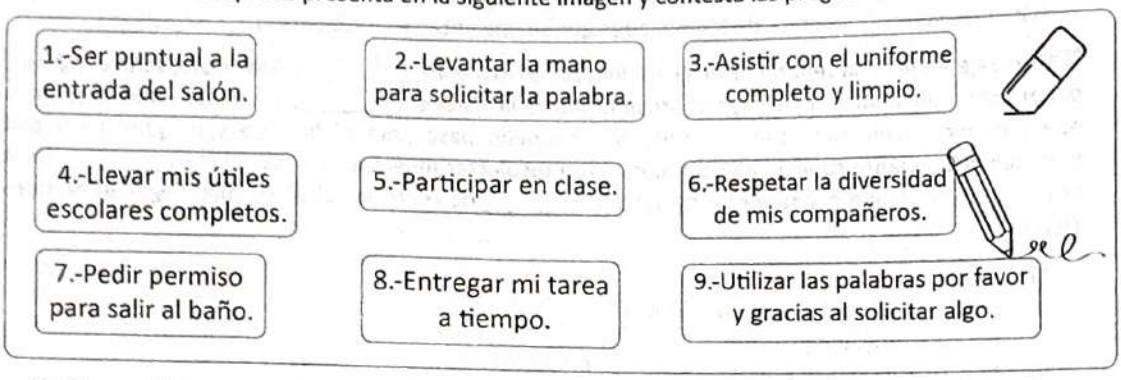

12. Observa la imagen e identifica cómo están ordenadas las reglas de convivencia.

a) Subtítulos
b) Numerales
c) Viñetas
d) Incisos

13. En las reglas que se muestran en la imagen, los verbos están escritos en:

a) Tiempo pasado
b) Modo infinitivo
c) Modo gerundio
d) Tiempo futuro

14. La información contenida en la imagen es un ejemplo de:

a) Instructivo
b) Código de conducta
c) Tríptico con información
d) Reglamento de aula

15. ¿En cuál numeral se encuentra una regla de convivencia inclusiva, equitativa e igualitaria?

a) [3] Asistir con el uniforme completo y limpio
b) [1] Ser puntual a la entrada del salón
c) [6] Respetar la diversidad de mis compañeros
d) [2] Levantar la mano para solicitar la palabra

Lee con atención el siguiente texto y responde las preguntas 16 y 17.

Las Redes Sociales

De pronto las redes se han convertido en un fenómeno social PUES están revolucionando la forma de comunicarse y de interactuar. Este tipo de comunicación *todavía* es una de las más usadas en todo el mundo porque permite compartir información con millones de personas de forma muy sencilla y práctica. Es sorprendente que permiten asistir virtualmente a acontecimientos, charlar en grupos, compartir información, participar en actos y estar en conferencias a distancia.

Pero las redes sociales tienen muchas desventajas, la privacidad se pone en peligro, especialmente en los menores de edad, DEBIDO A que cualquier persona tiene acceso a datos privados. Otro gran problema es que son adictivas, pudiendo provocar una obsesión capaz de mantener a una persona enganchada por muchas horas, además hay mucha información falsa. POR ESO, *siempre* las autoridades recomiendan un uso muy vigilado y responsable.

Jamás debemos usarlas sin control PORQUE pueden volverse un peligro contra nuestra privacidad, seguridad y salud; además, no todo lo que se ve, lee o escucha en las redes sociales es cierto.

16.¿A qué tipo de conectores o nexos pertenecen las palabras subrayadas y en cursivas del texto leído?

a) Lugar
b) Causal
c) Modo
d) Temporal

17. ¿A qué tipo de conectores o nexos pertenecen las palabras en mayúscula del texto leído?

a) Modo
b) Lugar
c) Causal
d) Temporal

18. Relaciona ambas columnas según corresponda.

Fuentes:	**Descripción:**
1. Fuentes bibliográficas	A. Sirven cuando se requiere información para realizar una tarea o investigación, se busca en varios medios de consulta.
2. Fuentes	B. Son aquellas lecturas que se realizan en libros para obtener información sobre un tema.
3. Fuentes hemerográficas	C. Son las que se consultan en periódicos, revistas o internet.
4. Referencias	D. Son aquellas que resumen la información en ideas principales.
	E. Son datos importantes para identificar de dónde se obtuvo la información.

a) 2A, 1B, 3C, 4E
b) 1A, 2B, 3C, 4D
c) 1B, 2A, 3D, 4E
d) 2E, 1B, 3C, 4D

19. Observa el esquema y realiza lo siguiente.

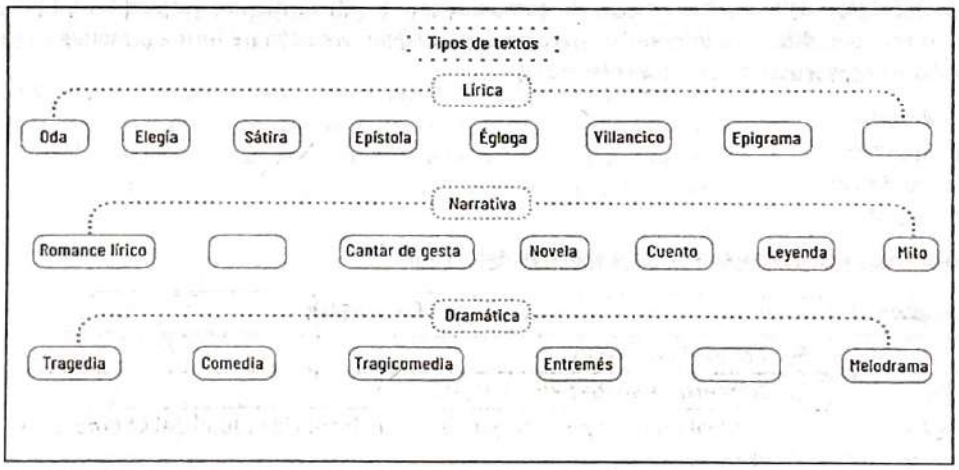

Completa los espacios en blanco del esquema "Tipos de textos", seleccionando la opción correcta.

a) I Epopeya, II Canción, III Sainete
b) I Canción, II Poema, III Guion
c) I Canción, II Epopeya, III Sainete
d) I Sainete, II Poema, III Guion

Lee los siguientes párrafos que son fragmentos del texto autobiográfico de José Clemente Orozco y contesta las preguntas de la 20 a la 22.

[1] Mi nombre es José Clemente Orozco y nací el 23 de noviembre de 1883 en Ciudad Guzmán, en el estado de Jalisco.

[2] Mi familia salió de Ciudad Guzmán cuando yo tenía dos años, estableciéndose por algún tiempo en Guadalajara y más tarde, en 1890, en la Ciudad de México.

[3] En ese mismo año, ingresé como alumno a la Escuela Primaria Anexa a la Normal de Maestros. En la misma calle, José Guadalupe Posada creaba en una imprenta sus famosos grabados.

[4] Posadas trabajaba a la vista del público y este fue el primer estímulo que despertó mi imaginación, la primera revelación de la existencia del arte de la pintura.

20. ¿En cuál de los párrafos anteriores se expresa una relación temporal de simultaneidad?

a) [1]
b) [2]
c) [3]
d) [4]

21. Siempre que salía de su casa rumbo a la Escuela Primaria Anexa, José Clemente Orozco Posada veía algo que despertó fuertemente su imaginación. ¿Cuál fue esa primera revelación en su vida?

a) La normal de maestros
b) El trabajo público
c) La imprenta de Posada
d) El arte de la pintura

22. A partir de la lectura del texto autobiográfico, ¿qué interés despertaron en José Clemente el ver los grabados de José Guadalupe Posada?

a) El gusto por el estudio
b) La imaginación al ver las pinturas
c) El gusto por los grabados
d) La imaginación por una imprenta

23. Esta definición describe a un medio de comunicación: En su estructura emplea todo tipo de recursos como gráficos, dibujos e infografías, para presentar su información de forma atractiva y breve. ¿A cuál medio de comunicación se hace referencia?

a) Boletín
b) Internet
c) Periódico
d) Revista

24. Relaciona cada concepto con su respectiva definición:

Concepto:	Definición:
1. Verso 2. Estrofa 3. Sinalefa 4. Métrica	A) Conjunto de versos.
	B) Número de sílabas en un verso.
	C) Enunciado o conjunto de palabras que forma la unidad del poema, sujeto a ritmo, rima y métrica.
	D) Unión de vocales que se juntan en un verso.
	E) Exige ritmo, pero no rima ni tiene métrica.

a) 1C, 2A, 3D, 4B
b) 1D, 2B, 3C, 4E
c) 1C, 2A, 3B, 4D
d) 1E, 2C, 3D, 4A

Lee con detenimiento el siguiente texto y contesta la pregunta 25.

El doctor explicó a Emiliano lo que estaba pasando con su abuelo

El doctor Tito, el médico de la comunidad, comentó que la hipertensión es una enfermedad que afecta a las arterias cuando la presión de la sangre es muy alta. Esto es lo que provoca que el corazón del abuelo de Emiliano trabaje más para llevar la sangre a todo su cuerpo, lo que genera mayor riesgo de sufrir un problema en el corazón o en el cerebro. Además, le podría provocar hipertensión pulmonar, la cual causa fatiga, desmayos o dificultad para respirar. Al final de la consulta, el doctor recomendó al abuelo disminuir el consumo de sal, comer frutas, verduras y realizar ejercicio físico todos los días de 30 minutos a una hora.

25. ¿Cuál de los siguientes párrafos contiene la idea central de lo que el doctor Tito le explicó a Emiliano? Elige la respuesta correcta.

a) El doctor comenta que el corazón del abuelo de Emiliano trabaja más para llevar la sangre a todo su cuerpo porque cuando hace esfuerzo tiene que respirar rápido
b) El doctor Tito menciona que la edad del abuelo de Emiliano es lo que afecta al funcionamiento del corazón y su sistema respiratorio, es por lo que presenta hipertensión
c) El doctor explica que existe una enfermedad de las arterias que afecta a los pulmones, cerebro y corazón, por lo que el abuelo de Emiliano debe mejorar su calidad de vida
d) El doctor Tito dijo que el abuelo de Emiliano debe descansar, recuperarse y dejar de comer sal para que mejore el funcionamiento de su organismo

26. Observa las siguientes cuatro imágenes, identifica el tipo de anuncio en cada una y relaciónalas con lo que promueven: un servicio, producto, campaña social o campaña política, según corresponda.

I

II

III

IV

a) I Producto, II servicio, III campaña social, IV campaña vacunación
b) I Servicio, II campaña social, III producto, IV campaña vacunación
c) I Producto, II campaña vacunación, III servicio, IV campaña social
d) I Servicio, II producto, III campaña social, IV campaña vacunación

Observa el siguiente mural que se titula "Sueño de una tarde dominical en la Alameda Central" de la Ciudad de México, pintada en 1947. Responde las preguntas de la 27 a la 29.

27. En la imagen del mural se observa una presencia relevante para nuestra cultura y tradición, pues aporta orgullo e identidad mexicana, ¿cuál es el singular y central personaje representativo de la historia de nuestro país?

a) La calavera garbancera
b) El pintor Diego Rivera
c) El presidente de la república
d) Don Porfirio Díaz

28. ¿Qué manifiesta o expresa el mural "Sueño de una tarde dominical en la Alameda Central"?

a) La algarabía que se vivía en esa época
b) La culminación de los movimientos armados
c) Una breve historia de México
d) Protesta contra el abuso de poder en México

29. En las obras de Rivera y Posada se aprecia un recorrido por diferentes épocas de la historia de México, las cuales se relacionan porque representan los problemas sociales entendidos como:

a) Acciones que dañan el medio ambiente en el que se desarrolla una sociedad
b) Situaciones que impiden el bienestar, desarrollo y progreso de una sociedad
c) Proceso por el cual pasa una sociedad para lograr sus objetivos culturales
d) Circunstancias por las que atraviesan sociedades para lograr desarrollo político

30. Relaciona adecuadamente el conector con sus elementos o ejemplos de unión entre enunciados.

Conectores:

1. Conectores de lugar
2. Conectores de causa
3. Conectores de modo
4. Conectores de tiempo

Elementos:

A. Aunque, sin embargo, pero, no obstante.
B. Porque, ya que, debido a, por eso, puesto que.
C. Y, e, ni que, además, inclusivo, adicionalmente.
D. Antes, después, mientras, cuando, temprano.
E. Aquí, cerca, atrás, lejos, al final, acá, abajo.
F. Bien, mal, regular, despacio, deprisa, así.

a) 1E, 2B, 3F, 4D
b) 1B, 2A, 3D, 4F
c) 1A, 2C, 3B, 4D
d) 1D, 2E, 3C, 4A

SABERES Y PENSAMIENTO CIENTÍFICO

31. Observa las siguientes imágenes y ordena correctamente el proceso en que el sistema inmunológico actúa cuando microorganismos como las bacterias invaden al cuerpo humano.

A) "Las células de memoria se activan ante la presencia de bacterias."

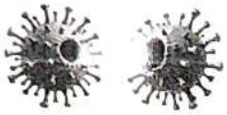

B) "Anticuerpos y linfocitos destruyen a la bacteria."

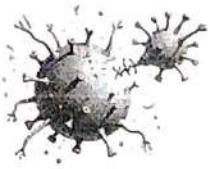

C) "La bacteria ingresa al cuerpo."

D) "Macrófagos fagocitan bacterias."

a) A, B, C, D
b) B, A, D, B
c) C, A, B, D
d) C, A, D, B

32. Relaciona cada concepto con su definición correspondiente.

Conceptos:

1. Patógenos
2. Macrófagos
3. Enfermedades autoinmunes
4. Virus
5. Bacterias

Definiciones:

A. Se presentan en el cuerpo humano debido a una falla del sistema de defensa.
B. Son microorganismos unicelulares sin núcleo, se consideran los seres vivos más antiguos del planeta y unos de los más abundantes.
C. Hebra bioquímica de uno de los dos ácidos nucleicos, ADN o ARN, incapaz de reproducirse a sí misma.
D. Son un tipo de glóbulos blancos de gran dimensión del sistema inmune innato.
E. Agentes infecciosos como hongos, virus y bacterias que causan diversas enfermedades.

a) 1E, 2D, 3A, 4C, 5B
b) 1E, 2D, 3C, 4B, 5A
c) 1B, 2C, 3D, 4A, 5E
d) 1E, 2A, 3B, 4D, 5C

33. Relaciona los problemas ambientales con algunas de sus características.

Problema ambiental:

1. Lluvia ácida
2. Contaminación de agua
3. Cambio climático
4. Pérdida de biodiversidad

Características:

A. Gases de efecto invernadero como el dióxido de carbono y el metano.
B. Cambio climático, sobreexplotación de recursos naturales, contaminación de agua.
C. Sustancias nocivas, a menudo productos químicos o microorganismos que contaminan un arroyo o río volviéndolos tóxicos.
D. Contaminación atmosférica cuando se libera ácido sulfúrico, alteración del PH de los océanos.

a) 1D, 2C, 3B, 4A
b) 1B, 2A, 3D, 4C
c) 1D, 2C, 3A, 4B
d) 1D, 2A, 3C, 4B

34. Relaciona los conceptos naturales con sus elementos correspondientes.

Conceptos:

1. Factores bióticos
2. Factores abióticos

Elementos:

A. Plantas, agua, animales.
B. Plantas, animales, insectos.
C. Agua, suelo, oxígeno.
D. Regiones naturales, agua, insectos.

a) 1D, 2A
b) 1B, 2C
c) 1A, 2D
d) 1C, 2B

35. Lee y analiza la siguiente información, posteriormente contesta la pregunta.

Un maratonista registró la distancia que recorrió cada día durante cinco días:

lunes	martes	miércoles	jueves	viernes
8.75 Km	12.60 Km	10.90 Km	9.55 Km	12.90 Km

¿Cuántos kilómetros recorrió el maratonista?

a) 54.00 Km
b) 54.50 Km
c) 54.70 Km
d) 55.00 Km

8.75
12.60
10.90
9.55
12.90
54.70

36. Lee la siguiente información y responde la pregunta.

Martina y Javier son amigos y cada semana van juntos a comprar tarjetas Pokémon. La semana pasada, Javier gastó $110.25, es decir, el triple de lo que gastó Martina.

¿Cuánto dinero gastó Martina?

a) $360.25
b) $330.75
c) $36.75
d) $33.75

37. En la feria del libro infantil, *"El Principito"* cuesta $300.00 y tiene un descuento del 20%, ¿cuál es el precio final por pagar?

a) $250.00
b) $295.00
c) $240.00
d) $239.00

38. Observa en el siguiente plano cartesiano e identifica la coordenada correspondiente al punto A.

a) (6, 4)
b) (4, 6)
c) (0, 6, 4)
d) (4, 0, 6)

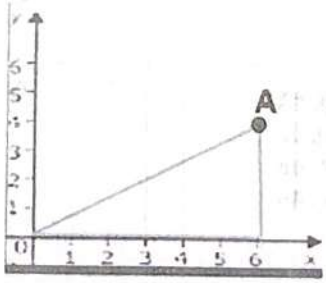

39. Observa la siguiente tabla de datos poblacionales adultos de algunos Estados y contesta la pregunta.

Tabla de población de adultos +60 años	
Sonora	78.7
Tabasco	78.4
Tamaulipas	70.5
Tlaxcala	76.2
Veracruz Ignacio de la Llave	77.8
Yucatán	78
Zacatecas	78.3

Fuente: CONAPO, 2018.

¿Cuál es la media aritmética?

a) 77.84
b) 76.90
c) 76.84
d) 77.90

40. Lee la siguiente información y contesta la pregunta.

Rosy tiene una caja con lápices de colores en las siguientes cantidades:

Color	Cantidad
Rosa	10
Azul	25
Naranja	2
Verde	10
Amarillo	15

¿Qué color de lápiz es más probable que Rosy saque al azar de la caja?

a) Amarillo
b) Azul
c) Rosa
d) Verde

41. Lee esta definición: Es la fuerza de atracción entre objetos con diferente masa. ¿A cuál concepto corresponde?

a) Aceleración
b) Inercia
c) Fricción
d) Gravedad

42. Observa los datos de la siguiente Tabla de Variación y analiza la lógica matemática de las variaciones en los datos presentados, para completar los espacios en blanco. Posteriormente responde la siguiente pregunta.

Número de la caja	Canicas amarillas	Canicas verdes
1	I).	IV).
2	12	V).
3	II).	24
4	24	32
5	III).	VI).

¿Cuál opción completa correctamente la tabla anterior?

a) Canicas amarillas: I). 6, II). 18, III). 30
Canicas verdes: IV). 16, V). 24, VI). 40
b) Canicas amarillas: I). 12, II). 24, III). 30
Canicas verdes: IV). 16, V). 32, VI). 40
c) Canicas amarillas: I). 12, II). 18, III). 24
Canicas verdes: IV). 8, V). 32, VI). 40
d) Canicas amarillas: I). 6, II). 18, III). 30
Canicas: verdes IV). 8, V). 16, VI). 40

43. Relaciona ambas columnas, las vacunas que forman parte del Esquema Nacional de Vacunación, con las enfermedades que previenen.

Vacunas:	Enfermedades:
A. DPT	1. Virus de papiloma humano
B. SRP	2. Difteria, tosferina, tétanos
C. BCG	3. Tuberculosis meníngea y miliar
D. VPH	4. Sarampión, Rubéola, Parotiditis

a) C1, B2, C3, A4
b) A1, C2, D3, B4
c) D1, A2, C3, B4
d) 1B, A2, B3, C4

44. ¿Cuál de las siguientes figuras tridimensionales, con volumen de 16 cm^3, tiene las siguientes dimensiones?

Largo = 4

Ancho = 2

Altura = 2

a)
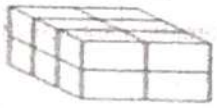

b)


c)

d)


En la siguiente imagen se muestra una familia que participó en el maratón: "Las Familias Unidas". Cada participante eligió un número para identificarse.



45. ¿Cuál es el procedimiento correcto para calcular la media aritmética de esos números?

a) Sumar los datos, restar el número menor y dividir entre el número de personas
b) Sumar los datos numéricos y dividir el resultado entre el número de personas
c) Sumar todos los números, multiplicar por diez y dividir entre el número menor
d) Sumar números mayores y dividir entre los números menores

46. ¿Cómo se genera la energía eléctrica?

a) Por medio de turbinas eléctricas, aspas de ventilador, reacciones del sol, agua, combustión por hidrocarburos
b) Por medio de baterías, lámparas, sol, agua, centrales eléctricas, centrales nucleares
c) Por medio de centrales eléctricas por turbinas de agua, reacciones nucleares, combustión por hidrocarburos
d) Por medio de cables, postes de luz, focos ahorradores, centrales nucleares

47. ¿Cuál de los siguientes materiales aislantes evitan el contacto directo con la electricidad?

a) Agua, alcohol, vinagre, madera
b) Goma, madera, papel, plástico
c) Cinta de aislar, teflón, alambre
d) Metal, plástico, madera, silicón

48. ¿Cuáles son algunas consecuencias negativas de la producción de energía eléctrica y otros combustibles?

a) Emisión de gases de efecto invernadero, degradación de ecosistema y pérdida de biodiversidad
b) Desarrollo de los cultivos, reserva de agua, cambio climático, efecto invernadero
c) Fortalecimiento de la fauna silvestre, contaminación de los ríos, pérdida de biodiversidad
d) Desempleo, migración e inmigración, perdida de cultivos, fortalecimiento de la fauna

49. El sistema _____ está compuesto por tejido linfático que transporta los linfocitos originados en la médula ósea.

a) reproductivo
b) inmunitario
c) respiratorio
d) linfático

50. ¿Cómo se llama el proceso físico y químico mediante el cual un organismo, parte de él, sus huellas o productos metabólicos, contribuyen a formar los linajes evolutivos y permite la preservación?

a) La evolución
b) La fosilización
c) La biodiversidad
d) La extinción

51. Relaciona los métodos anticonceptivos con el tipo al que pertenecen.

Métodos:	**Tipos:**
1. Naturales	A. Oclusión tubaria bilateral
2. De barrera	B. Pastilla anticonceptiva de emergencia (PAE)
3. Hormonales	C. Ritmo o calendario
4. Definitivos	D. Espermicidas

a) 1A, 2B, 3C, 4D
b) 1D, 2B, 3A, 4C
c) 1B, 2C, 3D, 4A
d) 1C, 2D, 3B, 4A

52. Observa la siguiente tabla con símbolos e identifica cuáles corresponden a los sistemas de numeración maya y decimal.

1	I V X L C D M	
2	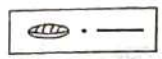	0123456789
3	0123456789	I V X L C D M
4		

a) 1
b) 2
c) 3
d) 4

53. Edder compró una pantalla Smart TV de 86 pulgadas con un precio de $27,549. Si obtuvo un 25 % de descuento, ¿cuánto pagó por la pantalla?

a) $ 20,386.26
b) $ 20,661.75
c) $ 20,937.24
d) $ 21,212.73

54. Relaciona las funciones vitales de los seres vivos con su definición.

Función:	Características:
1. Nutrición 2. Respiración 3. Reproducción 4. Adaptación 5. Irritabilidad e interacción	A. Conjunto de procesos para que, a partir de nutrientes, como la glucosa (carbohidrato), y oxígeno, se forme energía y se deseche el gas llamado dióxido de carbono. B. Capacidad de un organismo para formar nuevos seres de su especie, ya sea de manera sexual o asexual. C. Capacidad de los seres vivos para reaccionar (sentir) y responder a los estímulos del ambiente. D. Proceso mediante el cual los seres vivos toman los alimentos del medio o producen nutrientes con el fin de obtener la energía suficiente para todas las funciones que realizan. E. Proceso en el cual los seres vivos desarrollan la capacidad de sobrevivir en un entorno diferente, variando sus estrategias e incluso sus características físicas, en pro de conservar la vida.

a) 1D, 2A, 3E, 4B, 5C
b) 1A, 2C, 3B, 4E, 5D
c) 1A, 2E, 3B, 4D, 5C
d) 1D, 2A, 3B, 4E, 5C

55. Si consumes dos bolsas de esta botana al día, ¿cuál sería la cantidad total en miligramos de sodio que estarías ingiriendo?

	Cantidad por 100g	Cantidad por porción
Contenido energético	600 kcal = 2509 kJ	182kcal = 753 kJ
Proteínas	27,2 g	8,2 g
Grasas Totales	51,9 g	15,6 g
Grasas Saturadas	7,9 g	2,4 g
Grasas Trans	20 mg	6 mg
Hidratos de Carbono Disponibles	7,4 g	2,2 g
Azúcares	3,7 g	1,1 g
Azúcares añadidos	0 g	0 g
Fibra dietética	8,4 g	2,5 g
Sodio	490 mg	147 mg
Proteínas	%VNR* 12	

a) 490 mg
b) 588 mg
c) 980 mg
d) 1,176 mg

DE LO HUMANO A LO COMUNITARIO

56. Lee la información de las siguientes columnas y selecciona la opción que relaciona correctamente cada concepto con su definición.

Conceptos:

1. Salud reproductiva
2. Salud sexual
3. Métodos anticonceptivos
4. Prevención

Definiciones:

A. Acceso a información científica y laica para tomar decisiones sobre la propia salud sexual y reproductiva con responsabilidad.
B. Es el estado de bienestar físico, social y mental en relación con la sexualidad. Refiere el respeto al derecho de las personas a vivir experiencias sexuales informadas.
C. Estado de completo bienestar físico, social y mental; así como la ausencia de afecciones o enfermedades, en todos los aspectos relacionados con la reproducción, sus procesos y sus funciones.
D. Brindan protección contra el embarazo adolescente o el no planeado. Si se usan de forma correcta, son altamente efectivos. Su uso es un derecho, una responsabilidad y un servicio de salud.

a) 1C, 2B, 3D, 4A
b) 1B, 2D, 3A, 4C
c) 1D, 2A, 3B, 4C
d) 1A, 2C, 3D, 4B

Lee la siguiente información y contesta las preguntas 57 y 58.

Los Niños Basquetbolistas Triquis

Hace algunos años, un grupo de niños conmocionó a nuestro país. Jugaban básquetbol increíblemente, con un gesto característico: se movían descalzos, ligeros como entre nubes. Estos chicos captaron la atención de miles de personas, no sólo en México, sino en el mundo. En el año 2013, ganaron los seis partidos que disputaron en el cuarto Festival Internacional de Mini básquetbol de Argentina, los niños, procedentes de diversas comunidades de la sierra oaxaqueña, pertenecientes a la etnia de los Triquis fueron bautizados como "Los gigantes descalzos de la montaña". En el año 2016, se coronaron campeones de la Copa Barcelona de basquetbol, tras derrotar por marcador de 39-18 al Gravelins de Francia.

57. ¿Qué factores contribuyeron a que los niños ganaran los partidos de basquetbol a pesar de las condiciones desfavorables?

a) Motivación y descanso
b) Descanso y alimentación
c) Tener buen calzado y uniformes nuevos
d) Preparación y práctica constante

58. ¿Qué destrezas utilizaron los niños Triquis en el basquetbol para el logro de sus metas?

a) Sociales
b) Culturales
c) Deportivas
d) Cognitivas

59. Lee el siguiente caso y reflexiona:

El lunes por la mañana, unos niños se burlaban de Pedro porque lloraba. En ese momento llegó Saúl y les dijo: "**Ojalá pudieran ponerse en sus zapatos; si supieron por qué está llorando, lo comprenderían y seguramente dejarían de burlarse de él**".

De acuerdo con el texto marcado con negritas y subrayado, ¿qué habilidad está poniendo en práctica Saúl para solucionar este conflicto?

a) Autorregulación
b) Empatía
c) Autoconocimiento
d) Confianza

60. Lee la información de las siguientes columnas y selecciona la opción que relaciona correctamente cada concepto con su información.

Concepto:	Información:
1. Hidratación suficiente 2. Actividad física 3. Alimentación saludable	A. Permite mantener el cuerpo activo y sano para su buen funcionamiento mediante el consumo de frutas, verduras y líquidos abundantes. B. Es aquella que proporciona al cuerpo los nutrientes necesarios para funcionar correctamente. C. Tomar una cantidad suficiente de agua ayuda al cuerpo a mantener las articulaciones, los huesos y los dientes sanos, mejora la circulación de la sangre y mantiene un peso saludable hasta la edad adulta. D. Es beneficiosa y se puede realizar cotidianamente, lo puedes practicar cuando bailas, juegas o haces alguna tarea doméstica, como la jardinería y la limpieza, 30 minutos diarios de actividad aeróbica de intensidad moderada o vigorosa para mantener un estado de salud óptimo.

a) 1D, 2A, 3C
b) 1C, 2B, 3D
c) 1D, 2A, 3B
d) 1C, 2D, 3B

61. Selecciona la opción que incluye únicamente las capacidades necesarias para la resolución de problemas.

1. Observación 2. Conflicto 3. Reflexión	4. Toma de decisiones 5. Discusión 6. Análisis

a) 5, 2, 1, 4
b) 6, 2, 4, 3
c) 5, 1, 3, 4
d) 1, 3, 4, 6

62. Selecciona la opción que incluye únicamente los elementos que deben considerarse al construir o diseñar un proyecto de vida.

1. Objetivos	5. Acciones
2. Aspiraciones	6. Propósitos
3. Intereses	7. Metas
4. Emociones	8. Proyecciones

a) 7, 2, 3 ,4
b) 4, 3 ,2, 8
c) 2, 5, 6, 7
d) 1, 3, 4, 6

63. Selecciona las imágenes que representen una comunidad.

1

2

3

4

5

6

a) 1, 2, 3, 4
b) 2, 3, 4, 6
c) 2, 3, 4, 5
d) 1, 3, 5, 6

64. Relaciona cada periodo con su descripción, según el tiempo que se estimada para lograr una meta.

Periodo:

1. Corto plazo
2. Largo plazo
3. Mediano plazo

Descripción:

A. Se encuentran en un futuro próximo, el objetivo se pretende conseguir en tiempo moderado, por ejemplo, de un año, quizás a 24 meses.
B. Son tareas que se logran en un período, como puede ser una semana, un mes o algunos meses.
C. Su logro podría extenderse en periodos de cinco, diez o hasta más años.

a) 1C, 2B, 3A
b) 1A, 2B, 3C
c) 1B, 2C, 3A
d) 1B, 2A, 3C

65. ¿Qué hábitos contribuyen a llevar un estilo de vida saludable?

a) Tejer, pintar, comer saludable e higiene de manos y pies.
b) Actividad física, hidratación, vida sedentaria y comer saludable.
c) Comer saludable, hidratación, higiene y actividad física.
d) Higiene de manos y pies, tejer, pintar y comer saludable.

66. Lee la información de las siguientes columnas y selecciona la opción que relaciona correctamente cada red social con su información.

Red Social:

1. Facebook
2. WhatsApp
3. X (antes Twitter)
4. TikTok

Descripción:

A. Red donde los usuarios se informan sobre noticias y tendencias, interactúan con otros y promocionan negocios.
B. Sitio para compartir contenido creativo y entretenido, principalmente en formato de video de corta duración.
C. Plataforma para publicar contenido multimedia como fotos, videos y textos, los usuarios la utilizan para interactuar con amigos y familiares.
D. Servicio de mensajería instantánea donde se comparten fotos, videos, documentos y mensajes de texto.

a) 1A, 2B, 3C, 4D
b) 1C, 2D, 3A, 4B
c) 1B, 2A, 3D, 4C
d) 1D, 2C, 3B, 4A

67. Lee la información de las siguientes columnas y selecciona la opción que relaciona correctamente cada concepto con su definición.

Concepto:

1. Convivencia
2. Bienestar

Definición:

A. Es todo aquello que proporciona al cuerpo los nutrientes y las fuerzas necesarias para que funcione correctamente durante todo el día.
B. Es la forma en que compartimos con otras personas nuestras opiniones, estilos de vida, ideas y más, en diferentes ambientes como la familia, la escuela, la iglesia, entre otros.
C. Es una forma general basada en la interacción entre las condiciones de vida en un sentido amplio y los patrones individuales de conducta determinados por factores socioculturales.
D. Se refiere al estado en el que una persona experimenta un buen funcionamiento tanto en su actividad física como psicológica y existen cinco tipos: físico, personal, social, emocional y mental.

a) 1B, 2D
b) 1B, 2A
c) 1C, 2D
d) 1A, 2C

68. Lee la información sobre las cuatro etapas para la resolución de un conflicto y relaciona cada etapa con su descripción.

Etapas	Descripción
1. Identificar la problemática	A. Se verifica si se resolvió el problema mediante un seguimiento oportuno.
2. Trazar un plan	B. Se detalla paso a paso el plan y se ejecuta.
3. Poner en marcha el plan	C. Se propone una serie de soluciones.
4. Comprobar resultados	D. Entender cuál es el problema.

a) 1D, 2B, 3A, 4C
b) 1B, 2A, 3C, 4D
c) 1D, 2C, 3B, 4A
d) 1B, 2C, 3A, 4D

69. Lee la información de las siguientes columnas y selecciona la opción que relaciona correctamente cada concepto con su definición.

Concepto	Definición
1. Destreza	A. Se refiere al potencial de una persona para desarrollar habilidades o destrezas.
2. Habilidad	B. Se puede desarrollar mediante la práctica y experiencia.
3. Capacidad	C. Pueden ser positivas o negativas, variar en intensidad y duración.
	D. Pueden ser innatas o adquiridas.

a) 1B, 2C, 3D
b) 1A, 2B, 3D
c) 1B, 2D, 3A
d) 1A, 2B, 3C

70. Los hábitos de higiene son fundamentales para mantener una vida saludable y ayudar a prevenir enfermedades estomacales y respiratorias. Recuerda, un hábito es una acción repetida, tantas veces, que en ocasiones se realiza de manera automática.

Con base en lo anterior, selecciona la opción que presenta únicamente hábitos que debes fomentar para el cuidado de tu salud.

a) Realizar actividad física; usar el celular/computadora por periodos largos de tiempo; cepillarse los dientes después de cada comida
b) Realizar actividad física; consumir sustancias como alcohol y tabaco; lavarse las manos frecuentemente; bañarse diario
c) Consumo de alimentos altos en grasas y azúcares; consumo de sustancias de tabaco; lavarse las manos; bañarse diario
d) Lavarse las manos frecuentemente; bañarse diario; cepillarse los dientes después de cada comida; mantener uñas limpias y cortas

ETICA, NATURALEZA Y SOCIEDADES

71. Selecciona la opción que menciona las causas que dieron origen a la Revolución Mexicana y que caracterizaron el periodo de la historia de México conocido como el Porfiriato (1876 – 1911).

1) Alto salario a los obreros.
2) Despojo de tierra a los campesinos.
3) Plena libertad política.
4) Censura a la libertad de expresión.
5) Participación de mujeres en diferentes ámbitos.
6) Vulneración a los derechos humanos.
7) Represión a movimientos de protesta.

a) 1, 3, 5, 2
b) 2, 6, 7, 3
c) 4, 5, 6, 1
d) 2, 4, 6, 7

72. Lee la información de las siguientes columnas y selecciona la opción que relaciona correctamente a los personajes de la Revolución Mexicana con sus principales acciones.

Personajes de la Revolución Mexicana:

1. Emiliano Zapata
2. Francisco I. Madero
3. Venustiano Carranza
4. Francisco Villa

Principales acciones:

A. Representaba a los campesinos en el sur del país y decía que las tierras fueran de quien las trabajara.
B. Nacionalizó el petróleo y crearon un nuevo Estado mediante el ascenso de los sectores medios y populares.
C. Se caracterizó por buscar una mayor justicia social y redactó el Plan de San Luis en San Antonio Texas.
D. Algunos personajes destacados actuaron en diversos momentos del proceso revolucionario.
E. Se destacó por querer poner en práctica la soberanía estatal y municipal, implantó la educación militar en las escuelas oficiales, impulsó la construcción de un ferrocarril y una fábrica calcinadora de zinc, ayudó con sus fuerzas irregulares a combatir la rebelión orozquista en 1912.
F. Después del asesinato de Madero, se alió a las tropas de Venustiano Carranza en contra del general Victoriano Huerta; su actuación militar fue decisiva para la derrota del régimen del entonces presidente Huerta, a quien derrotó en 1914.

a) 1A, 2C, 3E, 4F
b) 2A, 1B, 4C, 3D
c) 3F, 2E, 1D, 4B
d) 4C, 2B, 3A, 1F

73. Selecciona la opción que relacione correctamente la zona donde predomine algún tipo de clima en México.

a) IA, IVB, IIIC
b) IIIB, IIA, IC
c) IA, IIIC, IIB
d) IIB, IVA, IC

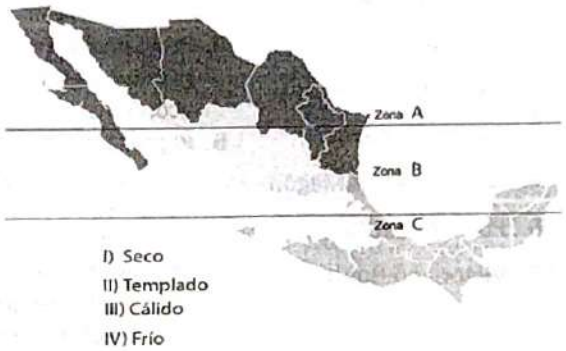

74. Selecciona la opción que menciona roles de género que promueven la igualdad.

a) Que las mujeres tienen el deber de estudiar y atender la casa
b) Que los hombres lloran y siempre deben dejarse de los demás
c) Las mujeres pueden llegar a ser grandes científicas y los hombres buenos chefs
d) Las mujeres y los hombres no tienen las mismas oportunidades

75. Selecciona las estrategias que contribuyen al cuidado de la biodiversidad y a mantener un ambiente sano.

a) Uso de las tres R; reciclar, reutilizar, razonar
b) Tener todas las luces encendidas, reciclar el agua
c) Plantar árboles, construir un huerto escolar
d) Preparar compostas, zafra con quema

76. Lee el siguiente fragmento y responde la pregunta.

Un chocolate muy especial
Eva María Riber

Una niña habla con su madre tras regresar a casa, después de una jornada en el colegio:
- Mami, mami, hoy llegó una niña nueva a la escuela.
- Qué bien, cariño. ¿Jugaste con ella?
- No, mami, la mordí.
- ¿La mordiste? ¿Por qué lo hiciste? ¡La niña nueva estará muy triste!
- Mami, yo quería probarla.
- ¿Probarla?
- Sí, mami, la niña nueva es de chocolate y otros niños la llamaron negra.

Observa la expresión subrayada en el texto ¿qué tipo de prejuicio se manifiesta?

a) Basado en la orientación sexual
b) Basado en lo Social
c) Basado en lo Religioso
d) Basados en capacidades físicas

77. Lee la información de las siguientes columnas y selecciona la opción que relaciona correctamente a los personajes con sus principales acciones.

Personajes:

1. Justo Sierra
2. Francisco I. Madero
3. Lázaro Cárdenas
4. Ricardo Flores Magón
5. Porfirio Díaz
6. Victoriano Huerta

Principales acciones:

A. Permaneció en el poder por más de 30 años, en los cuales hubo grandes cambios en el país; fue un período de relativa estabilidad económica en beneficio de un pequeño grupo.
B. Representó los intereses de los hacendados, de los comerciantes ricos y de militares, participó en el asesinato del presidente Madero.
C. Denunció la exclusión del indio en las promesas de modernización, argumentó la necesidad de instrumentar una política de integración por la vía de la educación.
D. Atendió el reparto agrario de más de 20 millones de hectáreas, en beneficio de campesinos. Nacionalizó el petróleo el 18 de marzo de 1938.
E. Fundó el periódico "Regeneración Nacional", a través de él quería dar a conocer distintas opiniones y maneras de pensar, así como informar de los acontecimientos del país.
F. Convocó a una lucha armada mediante el Plan de San Luis, el 20 de noviembre de 1910, contra un gobierno que se perpetuó en el poder durante más de 30 años.

a) 1C, 2B, 3E, 4F, 5A, 6D
b) 1D, 2E, 3F, 4B, 5C, 6A
c) 1E, 2F, 3D, 4B, 5A, 6C
d) 1C, 2F, 3D, 4E, 5A, 6B

78. Lee los siguientes enunciados y selecciona la opción que ordena cronológicamente los acontecimientos históricos.

1. Estalla la Revolución Mexicana estalló el 20 de noviembre 1910.
2. Inicia un periodo de la Historia de México conocido como Porfiriato (1876-1911).
3. Se garantiza la educación como un derecho social para los mexicanos en 1910.
4. Se promulga la Constitución de 1917 y se atendieron las demandas de los grupos sociales que lucharon en la Revolución Mexicana.
5. Se establecen los artículos 3°, 4°, 27° y 123°, referentes a la educación, la igualdad ante la ley, la soberanía nacional y las mejoras a las condiciones laborales de los trabajadores en 1917.
6. Se proclama el Plan de Ayala en 1911, por Emiliano Zapata.

a) 2, 1, 3, 6, 4, 5
b) 1, 2, 3, 4, 5, 6
c) 6, 5, 4, 3, 2, 1
d) 2, 6, 3, 4, 1, 5

79. Lee la información de las siguientes columnas y selecciona la opción que relaciona correctamente a los prejuicios con sus definiciones.

Prejuicios:

1. Sociales
2. Basados en diferencias físicas
3. Lingüísticos
4. Género
5. Religioso

Definiciones:

A. Juicios de valor negativos sobre personas que tienen una condición física, por la cual se supone que están limitadas para hacer algo en particular.
B. Argumentos fundados en supuestas cualidades de género.
C. Juicios de valor negativos sobre una persona por pertenecer a un grupo social determinado.
D. Creencia basada en clasificar a las personas por su forma de hablar.

a) 1A, 2B, 3C, 4D
b) 1D, 3A, 4C, 5B
c) 1C, 2A, 3D, 4B
d) 2A, 3D, 4B, 5C

80. Existen diversas acciones humanas que impactan de manera negativa a la biodiversidad en diferentes lugares; por ello, se deben establecer relaciones armónicas, para evitar y revertir el daño a la naturaleza.

Con base en lo anterior, selecciona la opción que incluye valores que contribuyen al cuidado de la biodiversidad.

a) Asertividad, conformismo, respeto
b) Responsabilidad, reciprocidad, compromiso
c) Compromiso, maltrato, consumismo
d) Solidaridad, concientizar, contaminar