OCI 2025 escuela - razonamiento matematico

Algebra Lineal (Universidad Mexicana S.C.)

Scan to open on Studocu

Studocu is not sponsored or endorsed by any college or university
Downloaded by Erick Christian Rosales Cruz (erick.christian.rosales.cruz@gmail.com)

Editorial MD

EXAMEN DE LA OLIMPIADA DEL CONOCIMIENTO INFANTIL

2025

Educación
Secretaría de Educación Pública

SEXTO PRIMARIA

NIVEL ESCUELA

I. Lenguajes

II. Saberes y Pensamiento Científico

III. Ética, Naturaleza y Sociedad

IV. De lo Humano y lo Comunitario

Ciclo escolar 2024-2025

This document is available on studocu

Downloaded by Erick Christian Rosales Cruz (erick.christian.rosales.cruz@gmail.com)

I. INSTRUCCIONES. Lee las siguientes preguntas y subraya la respuesta correcta.

1. Selecciona la respuesta que nos indica el orden correcto de cómo solucionar un problema:

I. Comprobar el resultado
II. Poner en marcha el plan
III. Trazar un plan para resolver
IV. Identificar el problema

A) IV, III, II, I B) I, II, III, IV C) II, I, III, IV D) IV, III, I, II

2. Cuando haya que jugar un deporte de grupo y a algunos les guste más el futbol y a otros el basquetbol o los quemados, para que todos estén conformes y poder decidir qué jugar primero, se puede llevar acabo un:

A) Ejercicio

B) Consenso

C) Deliberación

D) Mediación

3. Es una serie de proyectos que se llevan a cabo para promover algo o hacer un llamado de atención a la comunidad. Se busca dar a conocer un problema y encontrar soluciones para mejorar la situación.

A) Feria

B) Posada

C) Campaña

D) Perifoneo

4. Se refiere al estado en que una persona experimenta un buen funcionamiento tanto en su atividad física como psicológica. Existen 5 tipos; físico, social, personal, emocional y mental.

A) Soledad B) Estados de ánimo C) Sentimiento D) Bienestar

5. Se refiere a una decisión tomada por personas, grupos, instituciones, países o, incluso a nivel mundial, sobre una situación determinada que es aceptada en conjunto.

A) Acuerdo B) Reunión C) Bienestar D) Campaña

6. Selecciona algunos hábitos saludables.

A) Dormir 8 horas, hacer ejercicio, ir al supermercado, etc.

B) Dormir 8 horas, hacer ejercicio, comer saludablemente, etc.

C) Caminar 30 minutos diarios, comer a libre demanda, ir a la escuela.

D) Dormir 8 horas, comer frituras mientras se ve la TV, lavar la ropa.

Downloaded by Erick Christian Rosales Cruz (erick.christian.rosales.cruz@gmail.com)

7. Son procesos activados por el cuerpo en respuesta a un estímulo. Tienen la función de movilizar los recursos necesarios para adaptarse a una situación.

A) Empatía B) Enojo C) Sentimientos D) Emociones

8. Son un conjunto de leyes internacionales que buscan proteger a todos los menores de edad.

A) Derechos de las niñas y los niños

B) Constitución Política de los Estados Unidos Mexicanos

C) Leyes de Reforma propuestas por Benito Juárez

D) Reforma de Gobierno del Estado Mexicano.

9. Un problema de salud en México es la ingesta de una dieta desbalanceada, rica en alimentos con exceso de azúcares, como los refrescos, galletas, arinas, etc. Además, las personas ya no hacen suficiente actividad física, a esto le llamamos:

A) Conducta deportiva

B) Conducta psicológica

C) Conducta sedentaria

D) Conducta nómada

10. Selecciona la opción que incluya algunas características de las emociones.

I. Pueden ser positivas o negativas. II. Dañan al cerebro y el corazón.

III. Su intensidad puede variar. IV. Son automáticas e impulsan la acción.

V. Perjudican a las demás personas. VI. Sirven para obtener energía en la dieta.

A) I, II, III B) I, III, IV C) VI, V, II D) I, V, IV

11. Es la capacidad del ser humano de percibir, comprender y valorar su entorno, así como reconocer y reflexionar sobre sus propias acciones, pensamientos y sentimientos, lo que le permite tomar decisiones más acertadas y responsables.

A) Empatía B) Tolerancia C) Conciencia D) Resiliencia

12. La frase “Podré no estar de acuerdo con lo que dices, pero defenderé hasta la muerte tu derecho a decirlo”, es claro ejemplo de un valor llamado:

A) Respeto B) Conciencia C) Responsabilidad D) Tolerancia

13. Es un valor que implica apoyo, ayuda y cooperación, entre personas. Trae consigo un sentimiento que va más allá del individualismo y que busca el binestar colectivo.

A) Tolerancia B) Empatía C) Solidaridad D Responsabilidad

This document is available on studocu

Downloaded by Erick Christian Rosales Cruz (erick.christian.rosales.cruz@gmail.com)

14. Implica ponerse en el lugar de los demás y entender sus sentimientos.

A) Tolerancia B) Empatía C) Solidaridad D Justicia

15. Es cumplir con las obligaciones y compromisos con cuidado y atención.

A) Tolerancia B) Empatía C) Solidaridad D Responsabilidad

16. Es asegurarse que las personas tengan las mismas oportunidades que los demás para aprender, desarrollarse, trabajar, participar, jugar y expresarse, independientemente de las diferencias que puedan existir en la comunidad, como el color de piel, la apariencia, la edad, clase social, preferencia sexual, religión, etc.

A) Bullying B) Exclusión C) Inclusión D) Empatía

17. Significa seguir la huella, la pista. Se da por la necesidad de saber, de conocer.

A) Investigación B) Experimentación C) Ciencia D) Tecnología

18. La entrevista, la encuesta y la observación son claros ejemplos de:

A)Textos expositivos B) Instrumentos de investigación

C) Métodos de investigación D) Metodología de la investigación

19. Este tipo de investigación se emplea cuando la investigación tiene que ver con los números, está destinada a medir, organizar y comparar los resultados para descubrir las relaciones y comprender qué sucede.

A) Investigación cuantitativa B) Investigación mixta

C) Investigación cualitativa D) Investigación filosófica

20. Es una necesidad humana de ser y sentirse parte de un grupo, de saber que se puede contar con otros, incluso, en momentos difíciles sentir que se forma parte de un grupo, identificarse con los otros, sentirse a gusto y en confianza.

A) Empatía B) Reciprocidad C) Confianza D) Pertenencia

21. Aplicación de mensajería instantanea, donde se comparten fotos, videos, documentos, y mensajes de textos. Los usuarios lo utilizan para comunicarse con familiares, amigos, compañeros de trabajo de manera inmediata.

A) WhatsApp B) YouTube C) Facebook D) Twitter

22. Plataforma de video donde se sube contenido de cualquier tipo. Los usuarios lo utilizan para entretenerse, informarse, aprender y promocionar y compartir ideas.

A) WhatsApp B) YouTube C) Facebook D) Twitter

Downloaded by Erick Christian Rosales Cruz (erick.christian.rosales.cruz@gmail.com)

23. Esta habilidad permite a las personas visualizar objetos, formas y espacios en su mente, manipularlos y transformarlos y, luego, representarlos en diferente medios, como dibujos, maquetas, mapas, entre otros.

A) Imaginación visual y espacial.

B) Imaginación estética

C) Imaginación receptiva

D) Artes plásticas

24. Son los resultados de las relaciones, interacciones y comportamientos de los individuos, dentro de un contexto social e influyen en la forma como se estructura y se desenvuelve la sociedad.

A) Fenómenos metereológicos

B) Fenómenos sociales

C) Psicología social

D) Estructura social

25. Estos pueden limitar las oportunidades de las personas, restringir su capacidad para tomar decisiones y para desarrollar sus talentos y habilidades, y perpetuan la discrimianción y la desigualdad de género.

A) Roles de géneros B) Sexo C) Estereotipos D) Pobreza

26. Se trata de la transmisión de costumbres, valores, comportamientos, prácticas, creencias, historias, leyendas y celebraciones que pasan de generación en generación entre las personas de la comunidad.

A) Comunidad B) Tradiciones C) Leyendas D) Costumbre

27. Es cualquier conducta cuyo objetivo sea someter o dominar a otras personas o grupos por medio de la fuerza. Esta conducta puede causar intimidación o daños de tipo emocional, mental, físico o patrimonial.

A) Estereotipos B) Discriminación C) Violencia D) Xenofobia

28. Juicios de valor negativos que se tienen sobre los practicantes de una religión o culto. Por ejemplo, considerar que todos los musulmanes son violentos.

A) Prejuicios basados en la orientación sexual.

B) Xenofobia

C) Prejuicios contemporáneos

D) Prejuicios religiosos

This document is available on studocu

Downloaded by Erick Christian Rosales Cruz (erick.christian.rosales.cruz@gmail.com)

29. Conflicto armado que se desarrolló de 1910 a 1917 y cuyo objetivo inicial fue ponerle fin al gobierno de Porfirio Díaz, quien llevaba más de treinta años en el poder.

A) Independencia de México B) Guerra de Reforma

C) Revolución Mexicana D) Guerra fría

30. Práctica de encuentro entre dos o más personas, mediante la cual se conocen mejor las posturas de cada una para llegar a un acuerdo, ya sea al aceptar una postura, criticar ambas para llegar a una nueva o reconocer la necesidad de un segundo diálogo con mayores datos e información.

A) Tolerancia B) Convivencia C) Lenguaje D) Diálogo

31. Significa vivir con otras personas y habitar en armonía comunitaria diariamente en diferentes contextos y espacios, como en caso de la familia, en la escuela con los compañeros, docentes y amigos, y en la comunidad con los vecinos.

A) Tolerancia B) Convivencia C) Lenguaje D) Diálogo

32. En la actualidad en México, existen 68 lenguas indígenas y _____ variantes lingüísticas.

A) 365 B) 364 C) 55 D) 56

33. Se denominan _____ aquellas que tienen una amplia diversidad de ecosistemas, seres vivos y especies originarias de un lugar. Algunas son México, Brasil, Madagascar, India, China, etc.

A) Naciones megadiversas B) Potencias mundiales

C) Naciones en pobres D) Biodiversidad

34. El alcohol, tabaco, cocaína, fentanilo, son claros ejemplos de:

A) Sustancias psicoactivas B) Bioestimulantes

C) Medicamentos D) Tranquilizante

35. Es considerada la velocidad de la luz.

A) 300,000 km/s B) 300 km/s

C) 12 segundos por hora D) 8 minutos y 20 segundos

36. Son conjutos de estrellas que forman figuras; a cada una de las cuales se le ha asignado un nombre con la finalidad de dividir la esfera celeste en diferentes regiones y utilizarlas como punto de referencia y orientación.

A) Galaxias B) Hoyos negros C) Constelaciones D) Universo

Downloaded by Erick Christian Rosales Cruz (erick.christian.rosales.cruz@gmail.com)

37. También conocido como Cosmo, es la totalidad del espacio exterior detectable. Está conformado por galaxias, estrellas, planetas, materia oscura, radiación, entre otros.

A) Galaxias B) Hoyos negros C) Costelaciones D) Universo

38. Son materiales que no permiten la conducción eléctrica.

A) Aislantes B) Conductor C) Cable D) Metal

39. Es una forma de energía que se produce por el movimiento de electrones en un material conductor, como un metal.

A) Conductividad B) Conductores C) Electricidad D) Fuerza de atracción

40. Es una reacción química donde suele producirse calor y luz porque un combustible reacciona con un comburente.

A) Oxidación

B) Reacción

C) Cocción

D) Combustión

41. Es la unidad mínima de materia de un elemento.

A) Molécula B) Átomo C) Electrón D) Compuesto

42. Es una capa concentrada de gases (que, en su mayoría, están condensados) que se mantiene alrededor de un planeta por la fuerza gravitatoria. En la Tierra está formada principalmente por nitrógeno, oxígeno, argón y dióxido de carbono.

A) Ozono B) Hidrósfera C) Manto D) Atmósfera

43. Es el conjunto de especies de seres vivos que coexisten en una región del planeta y forman un ecosistema.

A) Biodiversidad B) Ecosistema C) Oasis D) Región geográfica

44. Capacidad de los seres vivos para reaccionar (sentir) y responder a los estímulos del medio ambiente.

A) Evolución B) Nutrición C) Irritabilidad D) Homeostasis

45. Proceso mediante el cual los seres vivos toman los alimentos del medio (heterótrofos) o producen sus nutrientes (autótrofos) con el fin de obtener la energía suficiente para todas las funciones que realizan.

A) Evolución B) Nutrición C) Irritabilidad D) Homeostasis

This document is available on studocu

Downloaded by Erick Christian Rosales Cruz (erick.christian.rosales.cruz@gmail.com)

46. Cirugía que cierra el paso de los espermatozoides por ambos conductos deferentes, impidiendo así el paso al semen, lo que resulta en la imposibilidad de generar un embarazo.

A) DIU B) Oclusión Tubaria Bilateral (OTB)

C) Implante subdérmico D) Vasectomía

47. Enfermedad producida por un virus que causa inflamación del hígado y puede generar cáncer de hígado, cirrosis o la muerte, además, es de fácil contagio, por lo que, puede provocar epidemias.

A) Dermatitis B) Tricomaniasis C) Hepatitis D) Sífilis

48. Son agentes infecciosos como hongos, virus y bacterias, que causas diversas enfermedades.

A) Leucocitos B) Anticuerpos C) Patógenos D) Eritrocitos

49. Son enfermedades que se presentan en el cuerpo humano debido a una falla en el sistema de defensa. Las células de este sistema atacan a los tejidos sanos del cuerpo porque los confunden con tejidos o sustancias externas, es decir creen que es un invasor.

A) Enfermedades autoinmunes B) Enfermedades infecciosas

C) Enfermedades mentales D) Hereditarias

50. Es la respuesta inmune que tiene el cuerpo desde el nacimiento. Está constituida por barreras como la piel, las lágrimas, la saliva y las mucosas (mocos) y son la primera línea de defensa del cuerpo humano.

A) Inmunidad adaptativa B) Inmunidad innata C) Anticuerpo D) Antígenos

51. Tejido que forma parte del centro de la mayoría de los huesos del cuerpo humano y genera glóbulos rojos (células de la sangre) y las células del sistema inmunitario, los leucocitos.

A) Tejido epitelial B) Tejido adiposo

C) Tejido conjuntivo D) Médula ósea

52. Son algunos ejemplos de medios audiovisuales.

A) Televisión, video y cine.

B) Periódico, revistas y carteles.

C) Música, audios y periódicos.

D) Ninguna de las anteriores.

Downloaded by Erick Christian Rosales Cruz (erick.christian.rosales.cruz@gmail.com)

53. Son plataformas dentro de una página web o aplicación para grupos de usuarios que comparten ciertos intereses. Estas también son utilizadas por los medios de comunicación privados o públicos.

A) Redes sociales B) Periódicos C) Revistas D) Libros

54. Es una obra hecha de materiales variados que, al moldearlos, adquiren una figura, generalmente de animales o personas.

A) Performance B) Videoarte C) Escultura D) Teatro

55. Movimiento acompasado que utiliza la música como base para realizar movimientos y coreografías.

A) Teatro B) Danza C) Escultura D) Flashmob

56. Es un código compartido por un grupo social para entablar la comunicación por distintos medios. Con él es posible compartir historias, tradiciones, recuerdos… Es el pilar de la cultura.

A) Lengua B) Código C) Mensaje D) Televisor

57. Este tipo de preguntas limita la respuesta a contestar bajo una estructura de opción múltiple o de verdadero y falso, este tipo de preguntas son fiables para obtener datos concretos.

A) Preguntas abiertas B) Preguntas cerradas

C) Preguntas mixtas D) Preguntas cíclicas

58. En un debate el rol de un evaluador es:

A) Determinar la objetividad y el argumento de las opiniones. Debe asegurar que ambas partes fueron tratadas en igualdad de circunstancias.

B) Registrar minuto a minuto lo que ocurre durante el debate.

C) Encargado de explicar el formato del debate; es decir, las reglas, el tiempo que dispone cada participante para dialogar, el rol y orden de cómo se presentarán y la mediación de preguntas y respuestas.

D) Es el responsable, a través de su lenguaje no verbal, de dar ritmo al debate. Su tipo determina el lenguaje.

59. Este tipo de reseña valora el sentido más relevante de la obra como la corriente y el estilo, su época histórica o las técnicas de narración ocupadas por el autor.

A) Informativa (explicativa o descriptiva) B) Crítica o analítica

C) Bibliográfica D) Literaria

This document is available on studocu

Downloaded by Erick Christian Rosales Cruz (erick.christian.rosales.cruz@gmail.com)

60. Es un relato que exagera algunas características o atributos de un pueblo o comunidad, partiendo de personajes y sucesos reales.

A) Poema B) Mito C) Leyenda D) Fábula

61. Tipo de adjetivo que alude a las cualidades del sustantivo. Ejemplo: *emocionada, esponjoso, capaz, tenaz, etc.*

A) Adjetivo demostrativo B) Adjetivo posesivo

C) Adjetivo numeral D) Adjetivo calificativo

62. ¿Qué opción relaciona correctamente las fracciones decimales con su equivalente en número decimal?

A) I-C, II-B, III-A	I) $\frac{3}{1000}$	A) 0.3
B) I-A, II-B, III-C	II) $\frac{3}{100}$	B) 0.03
C) III-B, I-A, II-C		
D) II-C, III-B, I-A	III) $\frac{3}{10}$	C) 0.003

63. ¿A cuánto equivale el 30% de $720?

A) $216 B) $24 C) $504 D) $151.5

64. Un hombre puede eyacular hasta 150,500,000 espermatozoides por mililitro de semen ¿Cómo se lee esa cantidad?

A) Ciento cincuenta millones quinientos.

B) Un billón, cincuenta millones, quinientos mil.

C) Quince millones, quinientos mil.

D) Ciento cincuenta millones, quinientos mil.

65. Si un implante subdérmico como método anticonceptivo puede funcionar eficázmente durante tres años. ¿ Por cuántos minutos es efectivo el método?

A) 1,576,800 minutos

B) 26,280 minutos

C) 1,095 minutos

D) 94, 608, 000 minutos

Downloaded by Erick Christian Rosales Cruz (erick.christian.rosales.cruz@gmail.com)

66. Según la información que viene en la siguiente etiqueta de información nutrimental, ¿Cuántos miligramos de proteína habrá en 2 porciones?

A) 5 gramos

B) 50 miligramos

C) 5 000 miligramos

D) 24 miligramos

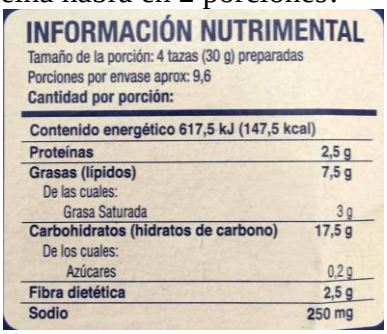

INFORMACIÓN NUTRIMENTAL

Tamaño de la porción: 4 tazas (30 g) preparadas
Porciones por envase aprox: 9,6
Cantidad por porción:

Contenido energético 617,5 kJ (147,5 kcal)	
Proteínas	**2,5 g**
Grasas (lípidos)	**7,5 g**
De las cuales:	
Grasa Saturada	3 g
Carbohidratos (hidratos de carbono)	**17,5 g**
De los cuales:	
Azúcares	0,2 g
Fibra dietética	**2,5 g**
Sodio	**250 mg**

67. Es la unidad de medida establecida para determinar la magnitud de la masa.

A) Gramo B) Kilogramos C) Metro D) Segundo

68. Son los números que se usan para contar cantidades. Para escribirlos se emplean combinaciones de los dígitos 0, 1, 2, 3, 4, 5, 6, 7, 8 y 9. Por tanto existen cantidad infinita de estos.

A) Números fraccionarios B) Números naturales

C) Números primos D) Números decimales

69. ¿Cómo se escribe con números la siguiente cantidad? Ciento un billones ochocientos mil millones ciento tres millones trescientos treinta mil seiscientos diecinueve.

A) 101, 810, 331, 619 B) 101,800,103,330,619

C) 100,001, 800,103,330,619 D) 800, 103, 619

70. Toma en cuenta que Carlos mide 160 cm y pesa 65 kilogramos. ¿Cuál es su índice de masa corporal?, puedes apoyarte de la siguiente fórmula.

A) 25.3906 kg/m^2

B) 2.5356 kg/m^2

C) 65 kg

D) 21.568 kg/m^2

Índice de Masa Corporal

$$\text{IMC} = \frac{\text{Peso (Kg)}}{\text{Altura (m)}^2}$$

71. Don Román vendió 37.5 cajas de mangos, en total el comprador le pagó $17,755.26

¿Cuánto le pagaron por cada caja de mango?

A) $473.4736 B) $665 822.25 C) $17 792.76 D) $47.3583

This document is available on studocu

Downloaded by Erick Christian Rosales Cruz (erick.christian.rosales.cruz@gmail.com)

72. José fue a la tienda y compró 2 limpiadores Pinol, 3 detergentes en polvo Viva y un detergente líquido para ropa 123. ¿Cuánto pagó en total? Apóyate de la siguente lista de precios.

A) $202.7

B) $142.4

C) $176.2

D) $184.4

73. Es la milésima parte de un metro, se representa con las letras **mm** minúsculas.

A) Milímetro B) Hectómetro C) Kilómetro D) Micrómetro

74. La siguiente camioneta tiene un peso de 2.9 toneladas, puede cargar hasta la mitad de su propio peso. ¿Cuántos kilogramos puede cargar la camioneta?

A) 14,000 kg

B) 1,450 kg

C) 2,900 kg

D) 1.45 toneladas

75. ¿Cuántos centímetros mide de largo el siguiente coche?

A) 464 cm

B) 271 cm

C) 181.5 cm

D) 153.3 cm

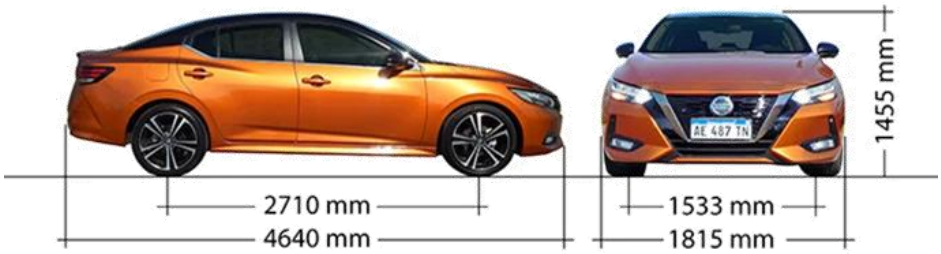

76. ¿Cómo se lee correctamente la siguiente expresión?

$678 < 2700$

A) Seiscientos setenta y ocho es mayor que dos mil setecientos.

B) Dos mil setecientos es mayor que seiscientos setenta y ocho.

C) Dos mil setecientos es mucho mayor que seiscientos setenta y ocho.

D) Seiscientos setenta y ocho es menor que dos mil setecientos.

Downloaded by Erick Christian Rosales Cruz (erick.christian.rosales.cruz@gmail.com)

77. La siguiente imagen es un claro ejemplo de:



A) Asimetría

B) Simetría central

C) Simetría axial

D) Centro de simetría

78. Son los números menores que cero y están ubicados a la izquierda de este en la recta numérica horizontal.

A) Números positivos B) Números negativos

C) Números primos D) Números pares

79. Unidad para medir el área de una superficie, que equivale a 10, 000 m^2. Esta unidad es común para indicar la superficie de un terreno.

A) Hectárea B) Metro cuadrado C) Kilómetro D) Parcela

80. Christian obtuvo las siguientes calificaciones en el primer trimestre de este ciclo escolar 2024-2025. Lenguajes 9, saberes y pensamiento científico 8, ética, naturaleza y sociedades 10, de lo humano y comunitario 8.

¿Cuál fue su promedio durante el primer trimestre?

A) 8 B) 8.5 C) 9 D) 8.75

Hasta aquí ha terminado tu prueba, suerte.

This document is available on studocu

Downloaded by Erick Christian Rosales Cruz (erick.christian.rosales.cruz@gmail.com)

CLAVE DE RESPUESTAS

1.A	21.A	41.B	61.D
2.B	22.B	42.D	62.A
3.C	23.A	43.A	63.A
4.D	24.B	44.C	64.D
5.A	25.A	45.B	65.A
6.B	26.B	46.D	66.C
7.D	27.C	47.C	67.B
8.A	28.D	48.C	68.B
9.C	29.C	49.A	69.B
10.B	30.D	50.B	70.A
11.C	31.B	51.D	71.A
12.D	32.B	52.A	72.A
13.C	33.A	53.A	73.A
14.B	34.A	54.C	74.B
15.D	35.A	55.B	75.A
16.C	36.C	56.A	76.D
17.A	37.D	57.B	77.A
18.B	38.A	58.A	78.B
19.A	39.C	59.D	79.A
20.D	40.D	60.C	80.D

Downloaded by Erick Christian Rosales Cruz (erick.christian.rosales.cruz@gmail.com)